thuvienhoclieu.com

Học nữa, học mãi

BÀI TẬP ÔN HÈ
LỚP 1 LÊN 2
MÔN TOÁN 1

Chóc c¸c em häc tèt!

BÀI TẬP THEO CHỦ ĐỀ

I. SỐ VÀ DÃY SỐ

1. Đọc, đếm, viết các số đến 100

Bài 1. Viết các số:

Bảy mươi tám: ……. Hai mươi tám: ……. Năm mươi tư: ……

Ba mươi: ……..... Sáu mươi mốt: …… Mười chín: ……...

Bảy mươi chín: ……. Tám mươi ba: ……. Bảy mươi bảy: ……..

Bài 2. Đọc số (theo mẫu):

23 đọc là Hai mươi ba 55 …….. 57 ……..

19 …….. 80 …….. 99……..

75 …….. 19 …….. 16 ……..

Bài 3. Viết:

- Các số có 2 chữ số giống nhau:…….....…….....
- Các số tròn chục có 2 chữ số:…….....……
- Các số có hai chữ số có chữ số đơn vị là 5:.....
- Các số có hai chữ số có chữ số chục là 3:.....

Bài 4*. Điền thêm 3 số hạng vào các dãy số sau:

a. 10; 12; 14; 16; ……; …..; …..

b. 1; 3; 5; 7; 9; 11; ……; …..; ……

c. 3; 6; 9; 12; 15; ……; ……; …..

Bài 5*. Tìm và viết ra các số hạng còn thiếu trong dãy số sau:

a. 80;78;……;…. ..; 72;70. b. 99; 97;…; …..; …..;89,87

Bài 6*.Viết tiếp ba số hạng vào dãy số sau:

a. 1; 3; 4; 7; ….; ….; ….. b. 0; 2; 4; 6; 12; …..; …..; …..

c.0 ; 3; 7; 12;…; …..; …..

Bài 7: Viết câu trả lời thích hợp vào chỗ chấm

- Từ 15 đến 27 có …… số

- Có tất cả ……số tròn chục có hai chữ số.

- Có ……số lẻ từ 26 đến 38

- Có …….số chẵn từ 35 đến 51

2. Thứ tự và so sánh các số:

Bài 1. Viết các số:

a. Từ 11 đến 20: ……,……,……,……,……,……,.. …,……,……,……..,……,……..,……

b. Từ 21 đến 30: ……,……,……,……,……,……,.. …,……,……,……..,……,……..,……

c. Từ 48 đến 54: ……,……,……,……,……,……,.. …,……,……,……..,……,……..,……

d. Từ 69 đến 78: ……,……,……,……,……,……,.. …,……,……,……..,……,……..,……

e. Từ 89 đến 96: ……,……,……,……,……,……,.. …,……,……,……..,……,……..,……

Bài 2. Viết các số 28, 76, 54, 74 theo thứ tự:

a. Từ lớn đến bé:.....

b. Từ bé đến lớn:.....

Bài 3.a. Khoanh vào số ***bé nhất:***

56 34 76 28

b. Khoanh vào số ***lớn nhất:***

88 39 54 58

c. Đúng ghi (**Đ**), sai ghi (**S**)

- Số liền sau của 23 là 24 ☐ - Số liền sau của 84 là 83 ☐
- số liền sau của 79 là 70 ☐ - Số liền sau của 98 là 99 ☐
- Số 78 là số liền trước của số 77 ☐ - Số 50 là số liền sau số 49 ☐

Bài 4. Viết vào mỗi vạch của tia số:

a.

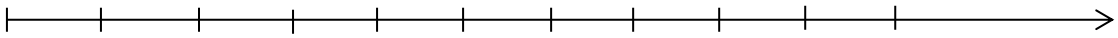

.....0.....3.....

b.

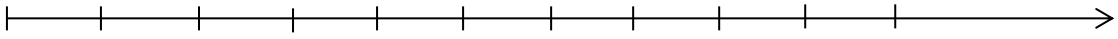

.....0.....50.....

c.

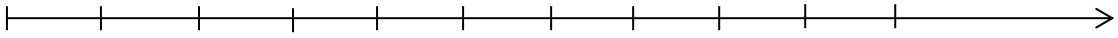

.....82.....86.....

Bài 5. Nối số với phép tính thích hợp:

70 **50** **30** **10**

92 – 22	**78 – 48**	**40 + 10**	**25 – 15**

Bài 6. Viết vào chỗ chấm:

Số liền trước	Số đã cho	Số liền sau
48	.....	.....
.....	80	.....
.....	.....	72

Bài 7. Viết số thích hợp vào ô trống:

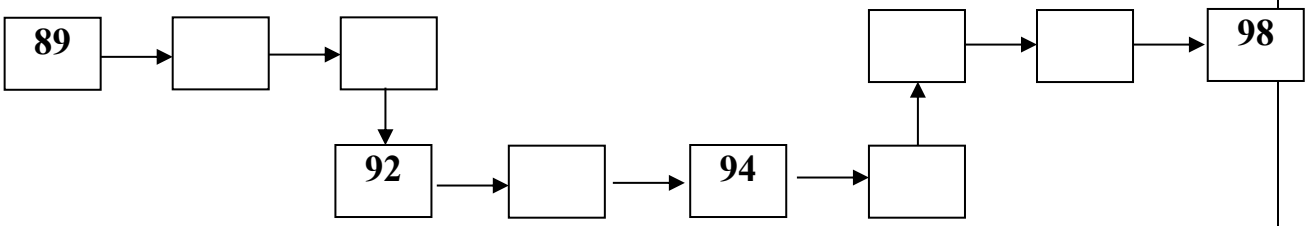

Bài 8. Viết số còn thiếu vào ô trống:

70							77		
	81							88	
		92							99

Bài 9.Nối phép tính với kết quả đúng:

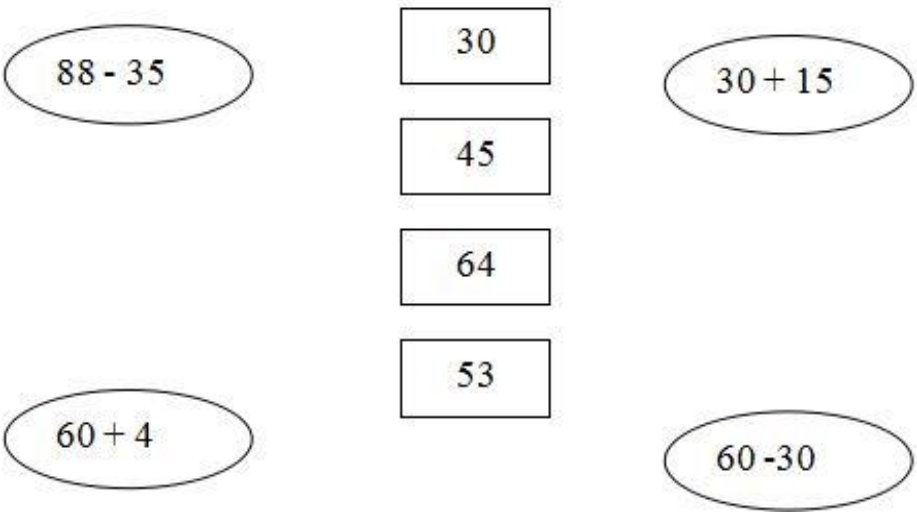

Bài 10. Viết:

- Số liền trước 60:…… Số tròn chục liền trước 35:……
- Số bé nhất có 2 chữ số:…….. Số lớn nhất có 2 chữ số:……..

- Số liền sau 37:…… Số tròn chục liền sau 54……

Bài 11. Viết:

- Số lẻ bé nhất có hai chữ số:.....
- Số chẵn lớn nhất có hai chữ số:.....
- Số tròn chục lớn nhất có hai chữ số:.....
- Số tròn chục bé nhất:.....
- Số lẻ liền sau số 15 là :.....
- Số chẵn liền trước số 78 là :.....

3. Cấu tạo số và giá trị vị trí của các chữ số

Bài 1. Làm theo mẫu:

Số 72 gồm 7 chục và 2 đơn vị	72 = 70 + 2
Số 84 gồm..... và.....;	84 = ... + ...
Số 85 gồm..... và.....;	85 = ... + ...
Số 98 gồm..... và.....;	98 = ... + ...
Số 89 gồm..... và.....;	89 = ... + ...

Bài 2. Đúng: ghi Đ – Sai: ghi S rồi viết lại cho đúng xuống bên dưới

Mười sáu 106	Sáu 6	Sáu mươi 610	Ba mươi 30	Ba 3	Ba mươi ba 303
S					
16					

Bảy mươi 70	Tám mươi lăm 85	Chín mươi mốt 30	Năm một 51

Số 64 gồm 6 và 4 64	Số 64 gồm 6 chục và 4 đơn vị 64

Số 64 gồm 60 và 4 64	64 = 60 + 4 64

Bài 3. Từ các số 4, 2 hãy lập các số có hai chữ số khác nhau: ……....

……

Bài 4.Từ các số 9, 5, 8, 0 hãy lập các số có hai chữ số khác nhau theo thứ tự giảm dần:.....

Bài 5. Cho 3 chữ số: 3,5,6 .

a.Hãy viết tất cả các số có hai chữ số khác nhau từ 3 chữ số trên

.....

b. Viết câu trả lời vào chỗ chấm: Lập được tất cả.....số.

c. Số lớn nhất trong các số vừa lập là :.....

d. Số bé nhất trong các số vừa lập là:.....

Bài 6. Cho 3 chữ số: 6,0,7 .

a. Hãy viết tất cả các số có hai chữ số khác nhau từ 3 chữ số trên

.....

b. Viết các số vừa lập theo thứ tự tăng dần:

.....

c. Viết các số vừa lập theo thứ tự giảm dần:

.....

II. PHÉP CỘNG VÀ PHÉP TRỪ TRONG PHẠM VI 100

Bài 1. Nối phép tính với kết quả (theo mẫu):

44 + 25	**28 + 31**	**22 + 15**	**65 + 13**
78	**37**	**69**	**59**
74 + 4	**36 + 33**	**12 + 47**	**24 + 13**

Bài 2. Tính:

82+ 11 = … 83 + 15 = … 82 + 13 = … 18 + 41 = … 17 + 52 = …

18 + 21 = … 38 + 61 = … 61 + 13 = … 17 + 22 = … 80 + 10 = …

Bài 3. Đặt tính rồi tính:

24 + 55	43 + 24	18 + 71	43 + 55	22 + 37
……	……	……	……	……..
……	……	……	……	……..
……	……	……	……	……..

Bài 4. Điền chữ số thích hợp vào dấu chấm:

3…	…3	5 2	7 3	4…
+	+	+	+	+
4 2	3 6	1…	…4	…3
…4	5…	…8	9…	9 7
5…	…9	6 8	7 5	6…
-	-	-	-	-
2 6	3 4	1…	…4	…3
…3	4…	…5	2…	2 4

Bài 5. Tính:

42 + 26 = ……. 70cm + 5cm = ……... 73 – 60 + 3 = ……....

87 – 70= ……. 83cm – 22cm = ……. 62 + 3 + 20 = …….

68 – 48 = ……. 29cm – 9cm = ……... 57 – 7 + 23 = …….

Bài 6. Số?

40 += ☐ 37 + = ☐ 53 + = 59 ☐

☐ - 60 = 12 ☐ - 49 = 0 75 = ☐ + 35

Bài 5.Số?

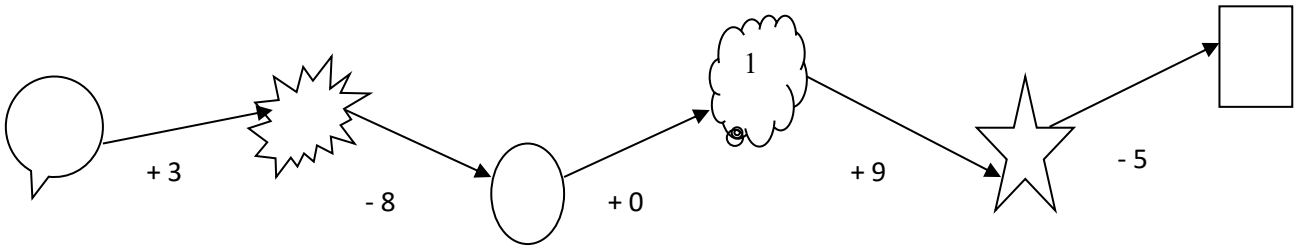

Bài 6. Tổng của số 43 với số liền trước nó là:……

Bài 7. Số đem cộng với 35 mà bằng 98 trừ đi 21 là số:……

Bài 8.

a. Tìm số có hai chữ số sao cho khi cộng 2 chữ số đó lại thì được 7.

b.Tìm các cặp số tròn chục sao cho khi lấy số lớn trừ đi số bé thì được 40.

III. SO SÁNH

Bài 1. Dấu (>, <, =)?

66 – 6 ☐ 68 – 8 42 + 45 9☐ 11

43 + 30 ☐ 98 – 12 54 – 30 ☐ – 34

36 + 23 ☐ 75 – 21 78 – 43 ☐ 74 – 43

Bài 2.Nối kết quả phép tính thích hợp với ô trống:

5 + 10 - 1 **18 - 5** **25 - 14** **18 – 4 + 1**

28 - 18 **19 - 10**

10 < ☐ < 15

IV. TOÁN CÓ LỜI VĂN

Bài 1. Lan hái được 14 bông hoa, Thanh hái được 5 bông hoa. Hỏi cả hai bạn hái được bao nhiêu bông hoa?

Tóm tắt Bài giải

Bài 2.Dũng có 30 nhãn vở.Sau khi cho bạn thì Dũng còn lại 20 nhãn vở.Hỏi Dũng đã cho bạn bao nhiêu cái nhãn vở?

Tóm tắt Bài giải

Bài 3. Lan cho Hồng 5 quyển sách, Lan còn lại 12 quyển sách. Hỏi Lan có bao nhiêu quyển sách?

Tóm tắt Bài giải

Bài 4. Anh có 17 hòn bi.Anh cho em 5 hòn bi.Hỏi anh còn bao nhiêu hòn bi?

Tóm tắt Bài giải

Bài 5. Nhà bạn Nam có 6 con vịt 12 con ngan. Hỏi nhà bạn Nam có tất cả bao nhiêu con vịt và con ngan?

Tóm tắt Bài giải

Bài 6.Lớp học có 20 học sinh nam và 16 học sinh nữ.Hỏi lớp có tất cả bao nhiêu học sinh?

Tóm tắt Bài giải

Bài 7. Anh có 30 que tính, em có 2 chục que tính.Hỏi anh và em có tất cả bao nhiêu que tính?

Tóm tắt Bài giải

Bài 8. Lớp 1A có 40 học sinh, lớp 1B có 3 chục học sinh.Hỏi cả hai lớp có bao nhiêu học sinh?

Tóm tắt Bài giải

Bài 9. Có một thanh gỗ được cưa thành hai mảnh dài 32cm và 60cm. Hỏi thanh gỗ lúc đầu dài bao nhiêu xăng ti mét?

Tóm tắt Bài giải

Bài 10. Tháng trước bố làm được 20 ngày công.Tháng này bố làm được 22 ngày công.Tính số ngày công bố làm được trong hai tháng đó?

Tóm tắt Bài giải

Bài 11. Đàn lợn của nhà bác Ba có 5 chục con.Bác bán cho hai người, mỗi người 10 con.Hỏi nhà bác còn bao nhiêu con lợn?

Tóm tắt Bài giải

Bài 12. Lớp 2 A có 15 học sinh giỏi. Lớp 2 B có ít hơn lớp 2 A là 4 học sinh giỏi.Hỏi cả hai lớp có bao nhiêu học sinh giỏi?

Tóm tắt

Bài giải

Bài 13. Bạn Hùng có 23 viên bi, bạn An có 30 viên bi. Hà có số bi là số liền trước của 13.Hỏi cả ba bạn có bao nhiêu viên bi?

Bài giải

Bài 14. Đoạn thẳng AB dài 15cm, bớt đi đoạn thẳng BC dài 5 cm. Hỏi đoạn thẳng AC còn lại bao nhiêu xăngtimét?

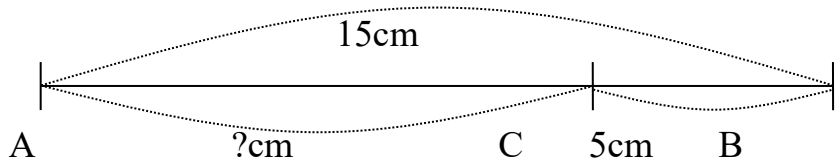

Bài giải

Bài 15: Dựa vào tóm tắt sau em hãy giải bài toán

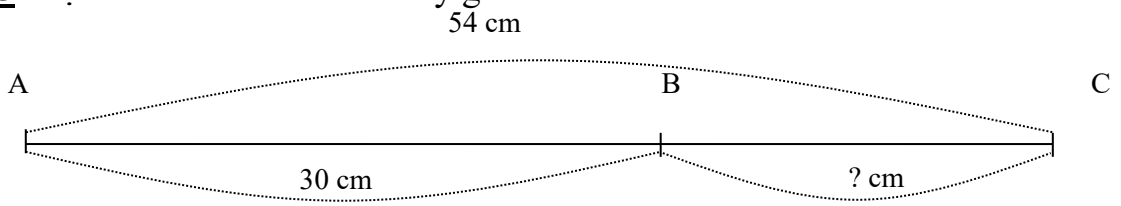

Bài giải

Bài 16. Dựa vào tóm tắt sau em hãy giải bài toán

Tóm tắt

Bóng đỏ: 8 quả

Bóng vàng: 5 quả

Tất cả: …quả?

Bài giải

Bài 17. Dựa vào tóm tắt sau em hãy giải bài toán

Tóm tắt

Gà: 13 con

Vịt nhiều hơn gà: 12 con

Tất cả: …con?

Bài giải

Bài 18. Hiện nay Việt 14 tuổi, Nam 15 tuổi.Hỏi trước đây 4 năm tuổi của Việt và Nam cộng lại bằng bao nhiêu?

Bài giải

Bài 19. Hiện nay Mai 12 tuổi, em trai của Mai 6 tuổi, mẹ của Mai 40 tuổi.

a. Tính tổng số tuổi của cả ba mẹ con Mai hiện nay?

b. Tính tổng số tuổi của cả ba mẹ con Mai hai năm trước?

Bài giải

V. THỜI GIAN

Bài 1.

Nếu hôm nay là thứ năm ngày 14 thì:

hôm qua là thứ ……... ngày……., hôm kia là thứ..... ngày.....,

ngày mai là thứ..... ngày....., ngày kia là thứ..... ngày.....

Bài 2. Giải toán:

a. Bố em đi công tác 1 tuần, bố đã đi được 6 ngày. Hỏi mấy ngày nữa bố về?

……

b. Lan ngồi vào bàn học bài lúc 7 giờ tối, đến 10 giờ đêm thì xong. Hỏi Lan học xong bài mất bao nhiêu thời gian?

……

……

Bài 3. Giải toán:

a. Em ở trường 4 giờ, em đi học lúc 7 giờ. Hỏi mấy giờ em về nhà ?

……

b. Một chiếc xe máy đi từ Phú Thọ đến Hà Nội lúc 11 giờ trưa, biết xe đi trong 3 tiếng. Hỏi xe khởi hành lúc mấy giờ ?

……..

VI. HÌNH HỌC

Bài1.

Hình vẽ bên có:

- ……hình vuông là:

……..

……..

- ……hình tam giác là:

……..

……..

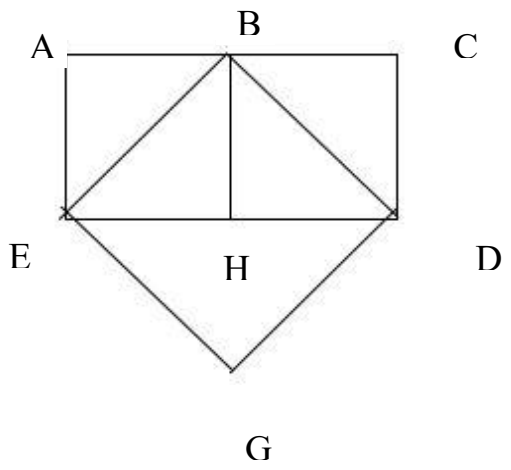

Bài 2.

- Vẽ 3 điểm ở trong hình tam giác.

- Vẽ 3 điểm ở ngoài hình tam giác.

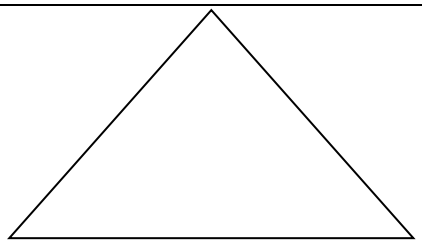

Bài 3. Trong hình vẽ bên có:

a.

..... hình vuông.

..... hình tam giác.

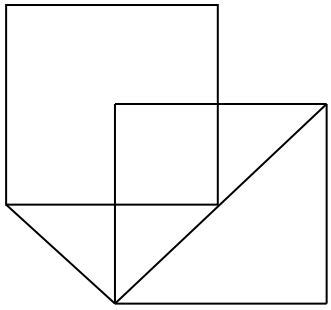

b.

..... hình vuông.

..... hình tam giác.

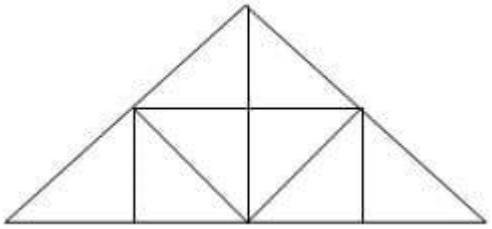

c.

..... hình vuông.

..... hình tam giác.

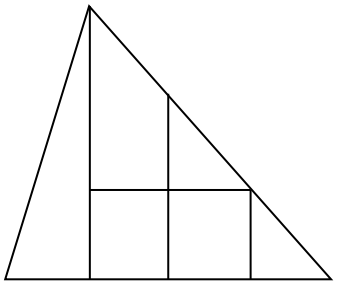

Bài 4.Mỗi hình vẽ dưới đây có bao nhiêu đoạn thẳng?

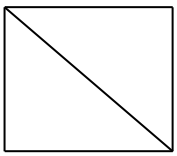

Có..... đoạn thẳng

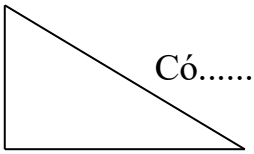

Có..... đoạn thẳng

Bài 5.

a.Vẽ đoạn thẳng CO dài 4cm rồi vẽ tiếp đoạn thẳng OD dài 6cm để được đoạn thẳng CD.

……

b. Tính độ dài đoạn thẳng CD trong hình vẽ trên:

……

Bài 6. Kẻ thêm 2 đoạn thẳng để có 6 hình tam giác.

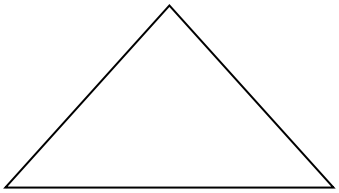

VII. TOÁN TƯ DUY

Bài1. Tiếp theo là hình nào?

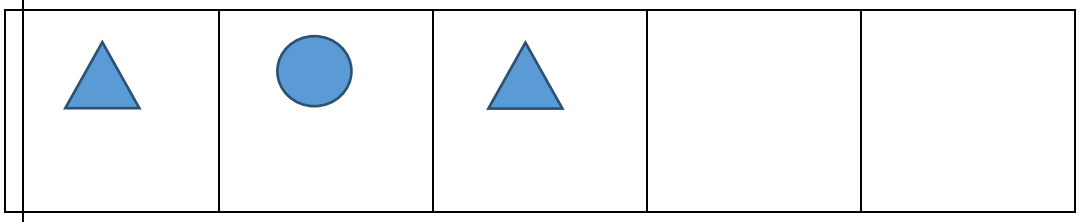

A. B. C.

Bài 2. Điền vào mỗi ◯ một số chẵn từ 0 đến 10 sao cho tổng mỗi cạnh của tam giác đều có kết quả bằng nhau.

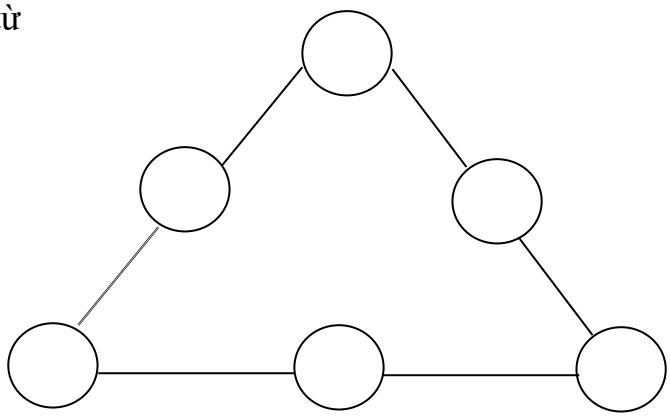

Bài 3. Điền số thích hợp vào chỗ dấu?:

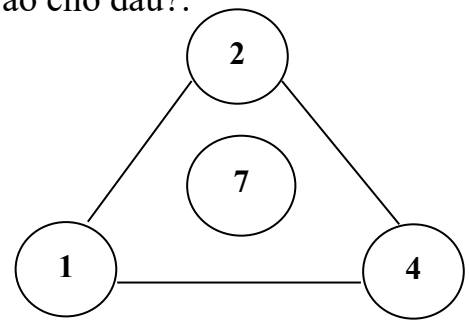

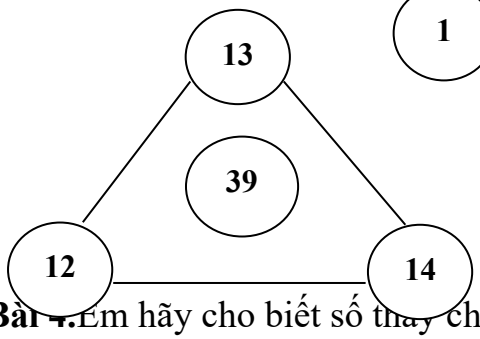

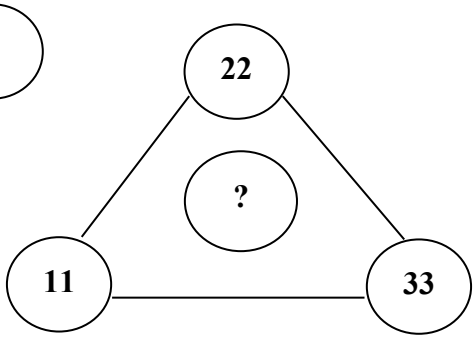

Bài 4. Em hãy cho biết số thay cho dấu "?" là số nào?

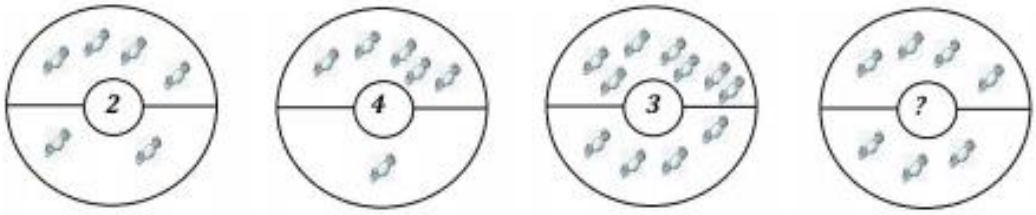

Bài 5. Điền số vào dấu?:

a.

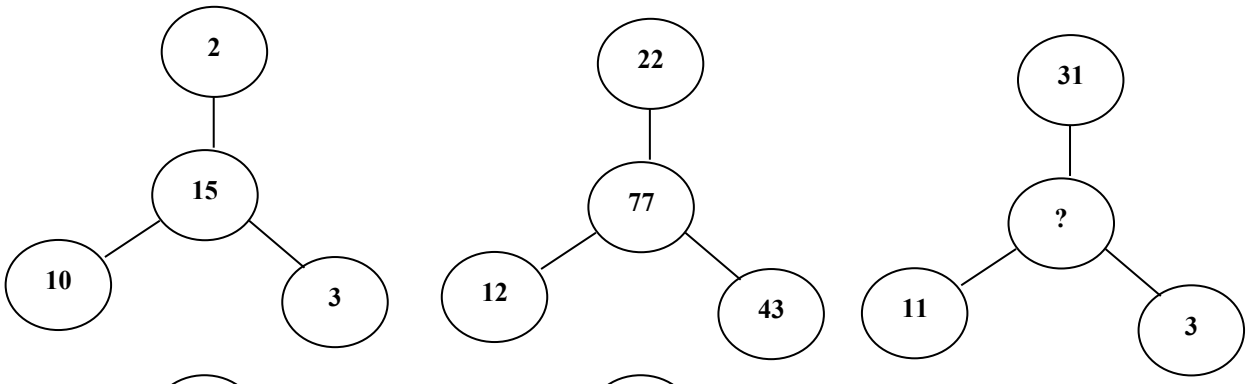

b.

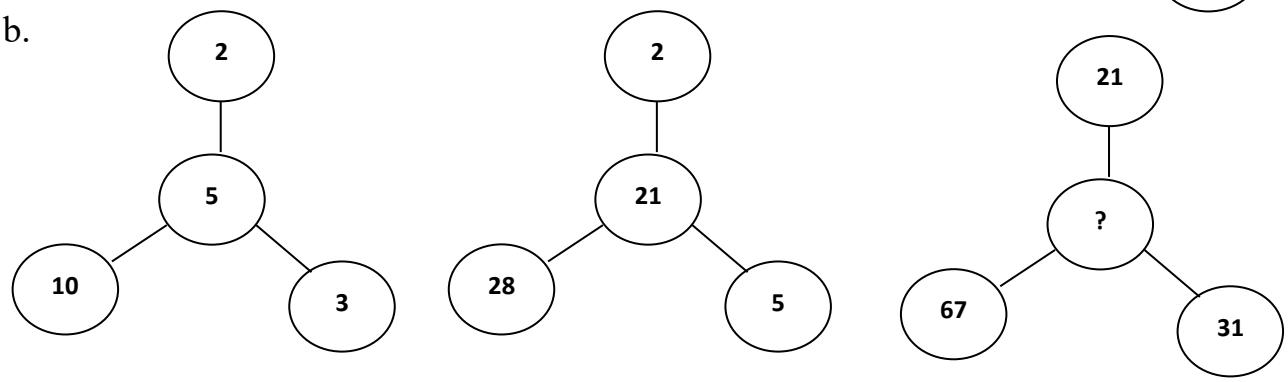

Bài 6. Điền vào chỗ chấm:



Bài 7. Em hãy cho biết hộp nặng nhất ?

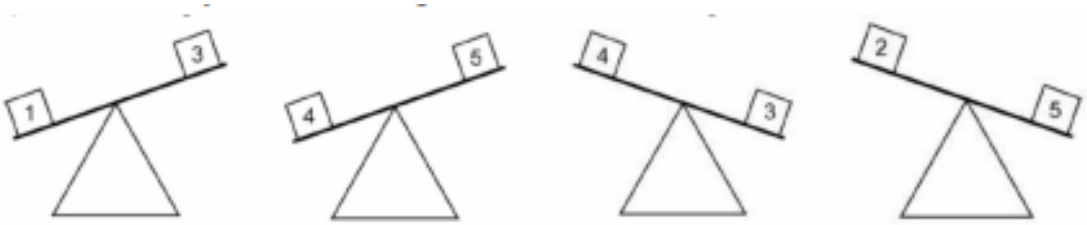

Bài 8. Một nhà buôn có5 đồng tiền vàng giống hệt nhau nhưng trong đó có 1 đồng tiền giả nhẹ hơn đồng tiền thật. Bằng cân hai đĩa (hình vẽ) em hãy hướng dẫn nhà buôn đó cách tìm ra đồng tiền vàng giả với số lần cân ít nhất.

Bài 9.Điền số vào ô trống sao cho khi cộng 3 số liền nhau có kết quả bằng 8.

		5					2			

Bài 10. Điền số thích hợp vào ô trống sao chto tổng các số trong ba ô liền nhau bằng 9.

a.

		2				4			

b.

	4							2	

B. ĐỀ ÔN TẬP TỔNG HỢP

ĐỀ SỐ 1

Bài 1.

a.Điền số thích hợp vào chỗ chấm:

60;…..; …...;….., 64; 65; …..; 67;…..;…..; 70

71;…..; 73;…..;…...; 76; 77; …..; …..; 80

b. Viết các số:

Bốn mươi ba:..... Ba mươi hai:.....

Chín mươi bảy:..... Hai mươi tám:.....

Sáu mươi chín:..... Tám mươi tư:.....

Bài 2.

a. Đặt tính rồi tính:

45 + 34 56 - 20 18 + 71 74 - 3

.....

.....

.....

.....

b. Tính:

58cm + 40cm = ... 57 + 2 - 4 = ...

Bài 3.

>		63	☐	60	65	☐	48	88 - 45	☐	63 - 20
<	?									
=		19	☐	17	54	☐	72	49 - 2	☐	94 - 2

Bài 4. Mẹ hái được 85 quả hồng, mẹ đã bán 60 quả hồng. Hỏi mẹ còn lại bao nhiêu quả hồng?

Bài giải

Bài 5. Vẽ thêm một đoạn thẳng để có một hình vuông và một hình tam giác?

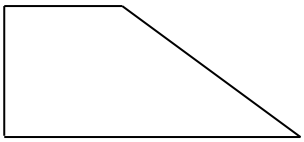

Bài 6. Vẽ đoạn thẳng MN có độ dài 8 cm?

.....

.....

Bài 7. Đồng hồ chỉ mấy giờ?



..... giờ



..... giờ

ĐỀ SỐ 2

Bài 1.

a. Viết các số

Năm mươi tư: …… Mười xăng ti mét: ……..

Bảy mươi mốt**:** …… Một trăm: ……..…

b. Viết các số 62; 81; 38; 73 theo thứ tự từ lớn đến bé:

.....

Bài 2. Đặt tính rồi tính:

3 + 63 99 – 48 54 + 45 65 – 23

.....

.....

.....

.....

Bài 3. Đồng hồ chỉ mấy giờ?





…… giờ …… giờ

Bài 4.

> < = ?	27	☐	31	94 - 4	☐	80	56 - 14	☐	46 - 14
	99	☐	100	18	☐	20 - 10	25 + 41	☐	41 + 25

Bài 5. Lớp em có 24 học sinh nữ, 21 học sinh nam. Hỏi lớp em có tất cả bao nhiêu học sinh?

Bài giải

Bài 6. Điền số vào chỗ chấm:

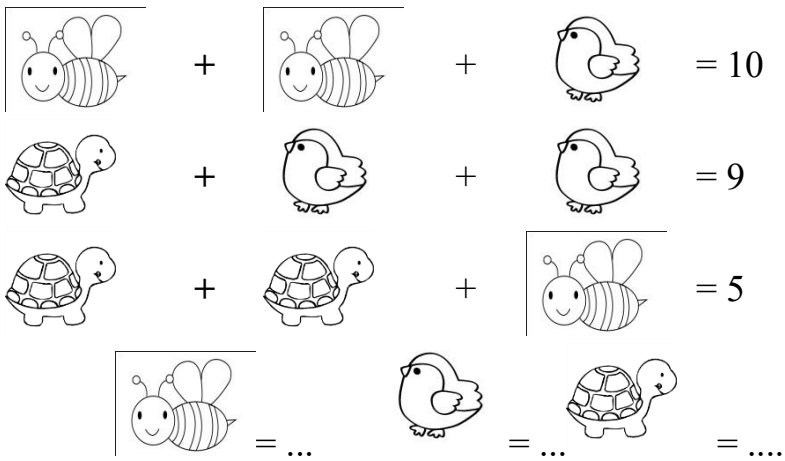

ĐỀ SỐ 3

Bài 1. Viết số

a. Viết các số từ 89 đến 100:.....

b. Viết số vào chỗ chấm:

Số liền trước của 99 là …… ; 70 gồm …… chục và ……đơn vị

Số liền sau của 99 là …… ; 81 gồm …… chục và ……đơn vị

Bài 2.

a. Tính nhẩm: 3 + 36 = ……... 45 – 20 = ……...

50 + 37 = …… 99 – 9 = ……

b. Đặt tính rồi tính:

23 + 63 58 – 16 43 + 36 56 – 36

.....

.....

.....

.....

Bài 3.

>	79 …… 74	56 ……... 50 + 6
<	…… 95	32 – 2 …….. 32 + 2

Bài 4.

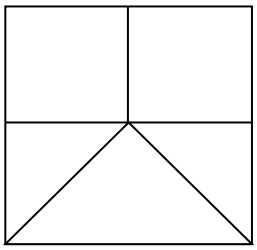

Hình vẽ bên có: …… hình tam giác

…… hình vuông

Bài 5. Trong vườn nhà em có 26 cây cam và cây bưởi, trong đó có 15 cây cam.Hỏi trong vườn nhà em có bao nhiêu cây bưởi?

Giải

Bài 6. Tìm một số biết rằng 10 trừ đi số đó rồi cộng với 3 được kết quả là 8.

.....

.....

.....

Bài 7. Điền số vào chỗ chấm:



ĐỀ SỐ 4

Bài 1. Đặt tính rồi tính:

56 + 43 79 – 12 4 + 82 65 – 23

.....

.....

.....

.....

Bài 2. Tính:

40 + 20 – 40 = ... 38 – 8 + 7 = ...

55 – 10 + 4 = ... 25 + 12 + 2 = ...

25cm + 14cm = ... 56cm – 6cm + 7cm = ...

48 cm + 21cm = ... 74cm – 4cm + 3cm = ...

Bài 3. Nam có 36 viên bi gồm bi xanh và bi đỏ, trong đó có 14 viên bi xanh. Hỏi Nam có mấy viên bi đỏ?

Bài giải

Bài 4. Một cửa hàng có 95 quyển vở, cửa hàng đã bán 40 quyển vở. Hỏi cửa hàng còn lại bao nhiêu quyển vở?

Bài giải

Bài 5.Một quyển sách có 65 trang, Lan đã đọc hết 35 trang. Hỏi Lan còn phải đọc bao nhiêu trang nữa thì hết quyển sách?

Bài giải

Bài 6. Tìm một số biết rằng số đó trừ đi 2 rồi cộng với 4 thì được kết quả bằng 10

Bài giải

ĐỀ SỐ 5

Bài 1.Tính

31 + 14 = ……..	36 – 21 = ……	87 + 12 = ……
14 + 31 = ……..	36 – 15 = ……	87 – 12 = ……
62 + 3 = ……..	55 – 2 = ……	90 + 8 = ……
62 + 30 = ……..	55 – 20 = ……	90 – 80 = ……

Bài 2. Tìm số điền vào chỗ chấm:

50 + …. = 50	49 – … = 40	49 – …. = 9
…. + …. = 40	75 = …. + …..	60 – ….. > 40

Bài 3. Em hãy nhìn vào các tờ lịch và điền vào chỗ trống:

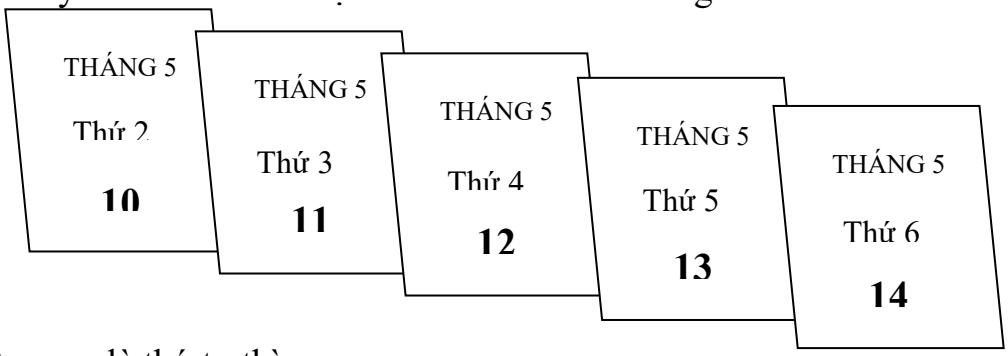

a. Nếu hôm nay là thứ tư thì:

- Ngày hôm qua là thứ …….. - Ngày mai là thứ ……....
- Ngày hôm kia là thứ ……... - Ngày kia là thứ ……....

b. Thứ năm là ngày....., tháng.....

Thứ....., ngày 11, tháng.....

Bài 4. Kì nghỉ hè, Lan về quê thăm ông bà hết 1 tuần lễ và 3 ngày. Hỏi Lan đã ở quê tất cả mấy ngày?

Bài giải

Bài 5. Vẽ đoạn thẳng AB có độ dài là 10 cm.

.....

.....

Bài 6. Tìm một số biết rằng lấy số đó cộng với 3 rồi bớt đi 5 thì bằng 2.

.....

.....

...

ĐỀ SỐ 6

Bài 1.

a. Viết các số Năm mươi: ……. Ba mươi mốt: ……...

b. Đọc số: 78: …… 99: ……...

c. Khoanh tròn số lớn nhất: 76 ; 67 ; 91 ; 89

d. Viết các số 96 ; 87 ; 78 ; 91 theo thứ tự từ bé đến lớn:

.....

Bài 2.

a. Đặt tính rồi tính:

6 + 52 37 – 25 66 + 22 89 – 77

.....

.....

.....

b. Tính:

35 + 40 – 75 =…….. 94 – 14 + 4 =…….

…… ……

80cm + 10 cm =…….. 35cm – 20cm =……..

Bài 3. Trong vườn có 65 cây bưởi và cây táo, trong đó có 45 cây bưởi.Hỏi trong vườn có mấy cây táo?

Bài giải

Bài 4. Nhà Lan nuôi 24 con gà và 25 con vịt. Hỏi nhà Lan nuôi tất cả bao nhiêu con gà vàvịt?

Bài giải

Bài 5.Nếu hôm nay là thứ ba ngày 5 tháng 5 thì:

- Ngày mai là thứ.....ngày.....
- Ngày hôm qua là thứ.....ngày.....
- Ngày kia là thứ.....ngày.....
- Ngày hôm kia là thứ.....ngày.....

Bài 6. Tiếp theo là hình nào?

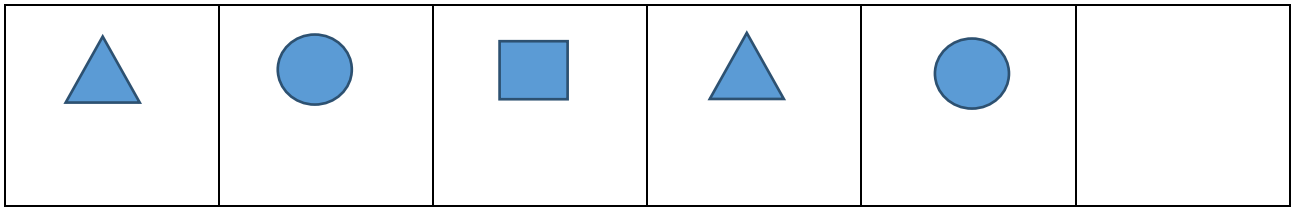

A. B. C.

ĐỀ SỐ 7

Bài 1.

a. Viết các số từ 89 đến 100:

.....

b. Viết số vào chỗ chấm:

Số liền trước của 80 là …… ; 46 gồm …… chục và ……đơn vị

Số liền sau của 99 là …… ;70 gồm …… chục và ……đơn vị

c. Viết các số tròn chục có hai chữ số:

……

Bài 2.

a. Tính nhẩm:

3 + 36 = ……... 45 – 20 = ……... 50 + 37 = ……

99 – 9 = …… 17 – 16 = …… 3 + 82 = ……

17 + 14 – 14 = …… 38 cm – 10cm = ……

b. Đặt tính rồi tính:

51 + 27 78 – 36 84 – 4 91 + 7

.....

.....

.....

Bài 3. Viết > ; < ; =

39 …… 74 89 …… 98 56 ……... 50 + 6

68 …… 66 99 ……100 32 – 2 …….. 32 + 2

Bài 4. Một đoạn dây dài 18cm, bị cắt ngắn đi 5cm. Hỏi đoạn dây còn lại dài mấy xăng ti mét?

Bài giải

Bài 5. Điền số thích hợp vào chỗ dấu?:

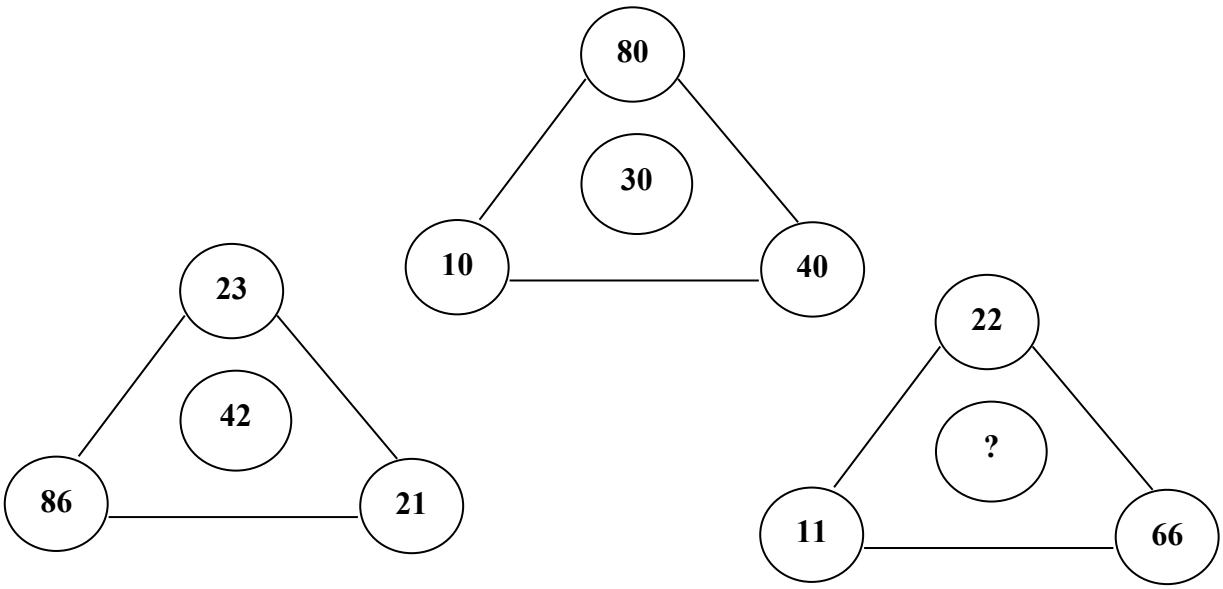

ĐỀ SỐ 8

Bài 1.Đặt tính rồi tính:

24 + 35 52 + 36 77 – 43 68 – 35

.....

.....

.....

Bài 2.

> < ?

65 ☐ 56 84 - 12 ☐ 67 76 - 14 ☐ 64 - 11

____ ____ ____

=	34		38	18		36 - 13	55 + 11		11 + 55

Bài 3: Tính

23 + 34 - 5 = 67 -7 + 21 = 90 - 30 - 6- =

23 + 45 - 65 = 4 + 52 + 10 = 98 - 34 - 34 =

Bài 4. Viết các số 38, 40, 25, 71 theo thứ tự:

a.Từ lớn đến bé:.....

b. Từ bé đến lớn:.....

Bài 5.Lớp 1A có 24 học sinh. Lớp 1B có 21 học sinh. Hỏi cả hai lớp có bao nhiêu học sinh?

Bài giải

Bài 6.Điền số thích hợp vào chỗ chấm.

Hình dưới đây có:..... hình chữ nhật

.....hình tam giác

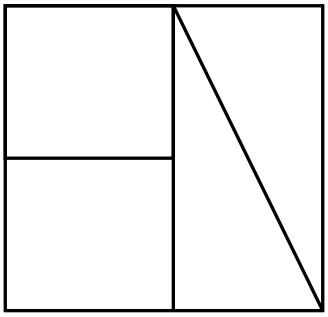

ĐỀ SỐ 9

Phần 1: Khoanh tròn vào câu trả lời đúng nhất

1. **Một tuần lễ em đi học mấy ngày?**

A. 7 ngày B.6 ngày C. 5 ngày D.4 ngày

2. **65 gồm:**

A. 60 chục và 5 đơn vị C. 5 chục và 6 đơn vị

B. 6 chục và 5 đơn vị D. 6 và 5

3. **55 đọc là:**

A. năm mươi năm B. năm mươi lăm C. năm năm D. năm lăm

4. **Hình bên gồm:**

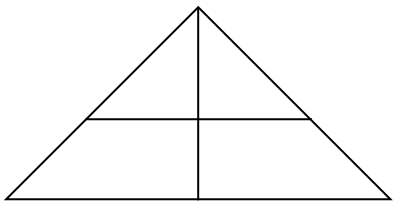

A. 4 hình tam giác

B. 5 hình tam giác

C. 6 hình tam giác

D. 7 hình tam giác

Phần 2:

1. Tính

+ 56 43	– 97 25	+ 4 31	– 68 4
……..	……..	……..	……..

2. Điền dấu <,>, = vào chỗ chấm:

27cm – 21cm……..8cm 34cm + 52cm …….52cm + 34cm

41cm + 8cm ……..45cm 13cm + 43cm …….42cm + 13cm

3. Viết số

Số liền trước	Số đã biết	Số liền sau
	80	
	49	
	99	
	61	

4. Lớp 1A có 36 bạn trong đó có 10 bạn nữ. Hỏi có bao nhiêu bạn nam?

Bài giải

5. Điền số vào dấu?

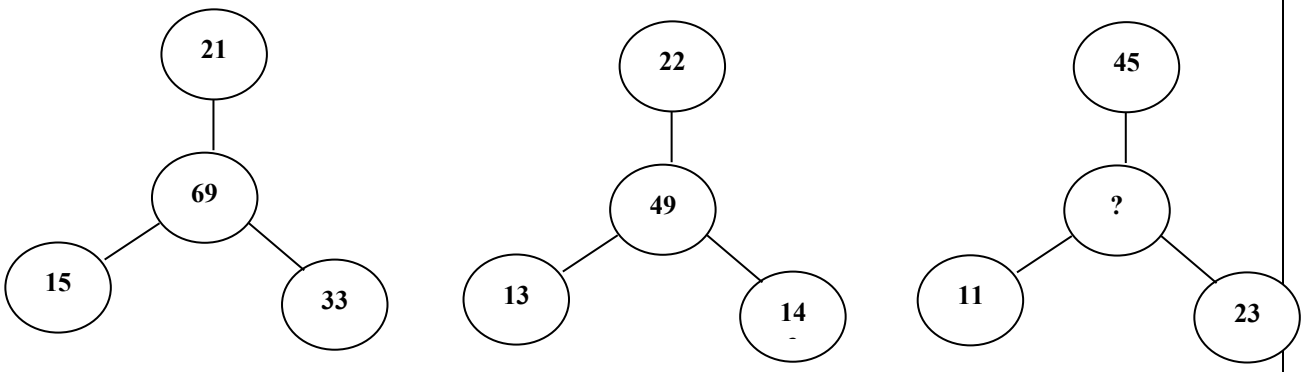

ĐỀ SỐ 10

Bài 1. a. Khoanh vào số lớn nhất:

72 96 85 47

b. Khoanh tròn vào số bé nhất:

50 61 48 58

Bài 2. Khoanh vào chữ đặt trước kết quả trả lời đúng.

a. Số liền trước của số 70 là:

A. 71 B. 69 C. 60 D. 80

b. Số liền sau của số 99 là:

A. 98 B. 90 C. 89 D. 100

Bài 3. Đúng ghi Đ, sai ghi S vào ô trống:

a. 77 – 7 – 0 = 77 ☐ c. 65 – 33 < 33 ☐

b. 90 + 5 > 94 ☐ d. 63 = 36 ☐

Bài 4. Đặt tính rồi tính:

26 + 63 52 + 37 68 - 31 75 – 45

.....

.....

.....

Bài 5. Một cuốn truyện có 37 trang, Lan đã đọc được 2 chục trang. Hỏi còn bao nhiêu trang Lan chưa đọc?

Bài giải

Bài 6. Giải bài toán theo tóm tắt sau:

Có: 37 hình tròn

Tô màu: 24 hình tròn

Không tô màu:.....hình tròn?

Bài giải

Bài 7.Kẻ thêm một đoạn thẳng để có 2 hình tam giác:

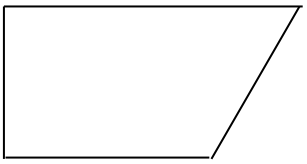

ĐỀ SỐ 11

Bài 1. Khoanh tròn vào chữ đặt trước câu trả lời đúng ở các bài tập sau:

1. Số bốn mươi hai được viết là:

A. 402 B. 42 C. 24 D. 204

2. Trong các số: 38, 19, 71, 62. Số lớn nhất là:

A. 38 B. 19 C. 71 D. 62

Bài 2. Nối theo mẫu:

Thứ hai	Ngày 14	Thứ năm
	Ngày 15	
Thứ bảy	Ngày 16	Thứ ba
	Ngày 17	

Bài 3. Điền dấu thích hợp vào ô trống:

>	100	☐	10	95	☐	59
<	15	☐	41	34	☐	60
=	20	☐	20	22	☐	11

Bài 4. Đặt tính rồi tính:

39 – 33 56 – 11 47 + 52 42 + 24

.....

.....

.....

Bài 5. Tính:

4 + 14 + 1 = ... 85 - 2 - 2 = ...

41 + 41 + 12 = ... 45 - 25 + 25 = ...

Bài 6. Mẹ mua về một số quả táo, bữa trưa ăn 5 quả táo, bữa tối ăn 4 quả táo thì còn 10 quả. Hỏi mẹ mua bao nhiêu quả táo?

Bài giải

ĐỀ SỐ 12

Bài 1.

a. Điền số?

70			73		75		77		79	

b. Viết (theo mẫu):

53: Năm mươi ba 30:..... 60:.....

Tám mươi tư: 84 Bảy mươi ba:..... Hai mươi mốt:.....

c. Viết các số 27 ; 63; 55; 20

- Theo thứ tự từ bé đến lớn:.....

- Theo thứ tự từ lớn đến bé:.....

Bài 2. Tính:

a. 15 + 3 - 4 =..... 50 cm + 30 cm = ...…

b. 80 - 40 + 20 =..... 13 cm + 5 cm - 7 cm = ...

b.

+ 62	- 75	+ 42	- 86
15	33	20	36
.....	.....	.....	.....

Bài 3.Điền dấu >; <; =?

75 ☐ 3 + 34 20 + 35 ☐ 56

86 - 25 ☐ 51 67 - 7 ☐ 90-30

Bài 4.Điền sốthích hợp vào ô trống:

☐ + 10 > 20 35 - ☐ = 35

☐ + 30 < 50 20 + ☐ > 20

Bài 5: Nhà An nuôi được 38 con gà và con thỏ, trong đó có 12 con thỏ. Hỏi nhà An nuôi được bao nhiêu con gà?

Bài giải:

Bài 6: Vẽ thêm hai đoạn thẳng vào hình bên để được 1 hình vuông và 4 hình tam giác.

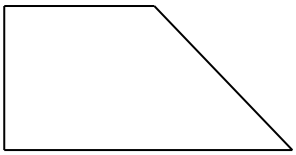

ĐỀ SỐ 13

Bài 1. a.Khoanh tròn vào số lớn nhất:

12,25,53,67,34.

b. Khoanh tròn vào số bé nhất

85,56, 24, 12,25.

Bài 2. Tính nhẩm:

25 + 0 =…..... 45 – 12 = ….....

12 + 23 = …..... 89 – 34 = ….....

Bài 3. Đặt tính rồi tính:

45 + 21	58 – 35	47 + 52	64 – 42
……	……	……	……
…….	…….	…….	…….
…….	…….	…….	…….

Bài 4.

a. Đo độ dài của đoạn thẳng MN

M N

b. Vẽ đoạn thẳng theo những độ dài sau: 8cm; 12cm

.....

.....

Bài 5. Một cửa hàng bán vải. buổi sáng cửa hàng bán được 45 m vải, buổi chiều cửa hàng bán được 12 m vải nữa. Hỏi cả ngày cửa hàng bán bao nhiêu m vải?

Bài giải

Bài 6. Cho hình vẽ:

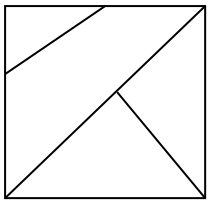

a. Trong hình có bao nhiêu hình vuông?

Có….. hình vuông

b. Trong hình có bao nhiêu hình tam giác?

Có….. hình tam giác

ĐỀ SỐ 14

Bài 1.

a.Viết số:

Ba mươi chín: ..... Sáu mươi hai: .....

Năm mươi lăm:..... Bốn mươi tám:.....

Tám mươi tám:..... Chín mươi bảy:.....

b. Viết các sổ: 25, 58, 72, 36, 90, 54 theo thứ tự:

-Từ lớn đến bé:.....

-Từ bé đến lớn:.....

c.

Số liền trước	Số đã biết	Số liền sau
	40	
	75	
	99	

Bài 2.

a. 15 + 4 – 8 = ... 80 cm – 50 cm =.....

18 – 6 + 3 =..... 40 cm + 20 cm =.....

b. 35 + 12 85 – 43 60 + 15 78 - 38

....

....

....

Bài 3. Điền dấu: <; >; = vào chỗ chấm:

19 – 4 ..... 25 30 + 40..... 60 + 20

40 + 15..... 58 42 + 5 ..... 58 - 8

Bài 4. Lan cho Hồng 5 quyển sách, Lan còn lại 12 quyển sách. Hỏi Lan có bao nhiêu quyển sách?

Bài giải

Bài 5. Hình bên có:

- ..... hình vuông
- ..... hình tam giác

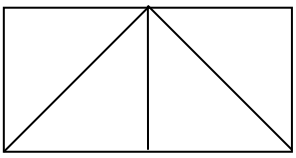

Bài 6. Khoanh vào chữ đặt trước câu trả lời đúng:

1. Số 62 gồm:

A. 60 chục và 2 đơn vịB. 6 chục cà 2 đơn vị C. 2chục và 6 đơn vị

2. Đồng hồ chỉ:

A. 12 giờ

B. 6 giờ

C. 3 giờ

ĐỀ SỐ 15

Bài 1. Điền số thích hợp vào ô trống:

a.

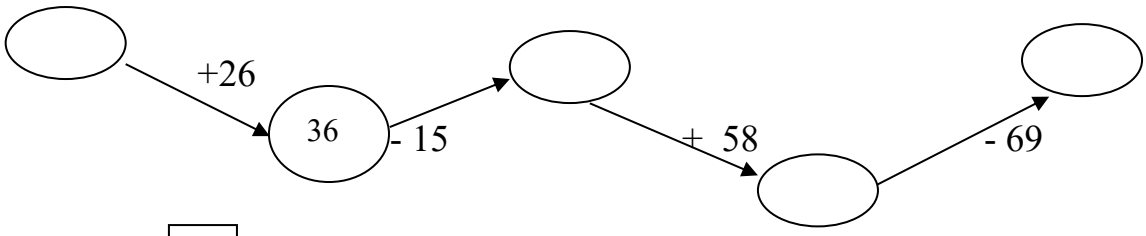

b. 19 - 5 + ☐

c.

17		23	26		

Bài 2. Điền dấu cộng (+) hoặc dấu trừ (-) vào chỗ chấm (…..) ở những sau để có phép tính đúng:

1…….1…….1…….1…….1…….1 = 6

1…….1…….1…….1…….1…….1 = 4

1…….1…….1…….1…….1…….1 = 2

1…….1…….1…….1…….1…….1 = 0

Bài 3.Điền dấu:<; >;=?

75 23 ☐ 34 20 + 35 56 ☐

86 - 25 ☐ 51 67 – 7 90 – ☐

Bài 4.Điền số?

☐ + 10 > 20 35 - ☐ = 35

☐ + 30 < 50 20 + ☐ > 20

Bài 5. Điền số vào ô trống sao cho khi cộng 3 số liền nhau có kết quả bằng 6.

				1			2				

Bài 6.Bình hỏi Minh: "Năm nay chị bao nhiêu tuổi?" Minh đáp: "Tuổi mình nhiều hơn 5 tuổi nhưng ít hơn 7 tuổi. Mình kém chị mình 4 tuổi". Hỏi chị của Minh năm nay bao nhiêu tuổi?

Bài giải

ĐỀ SỐ 16

Bài 1.

a. Viết số thích hợp vào chỗ chấm:

70 ;..... ;..... ; 73 ; ..... ;..... ;..... ;

..... ;..... ; 50 ;..... ;..... ;..... ; 54

b. Viết các số:

Ba mươi tư:..... Năm mươi ba:.....

Hai mươi lăm:..... Một trăm:.....

c. Viết số theo thứ tự từ lớn đến bé: 78 ; 87 ; 94 ; 49

.....

Bài 2. Số?

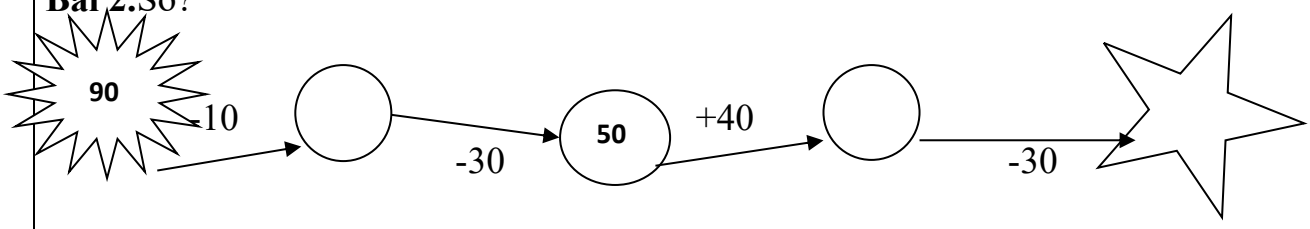

Bài 3. Tính:

13 + 4 - 5 =..... 24 cm – 4 cm =.....

26 – 5 + 8 =..... 40cm + 7cm – 37cm =.....

Bài 4. Điền số thích hợp vào ô trống:

☐ + 43 = 43 56 - ☐ = 56

22 + ☐ = 27 35 - ☐ = 31

Bài 5. Hè vừa rồi, bạn Bình về thăm ông bà nội được 1 tuần 2 ngày và thăm ông bà ngoại được 1 tuần 3 ngày. Hỏi bạn Bình đã về thăm ông bà nội ngoại được bao nhiêu ngày?

Bài giải

Bài 6. Hình vẽ bên có:

a. Có..... hình tam giác

b. Có.....vuông

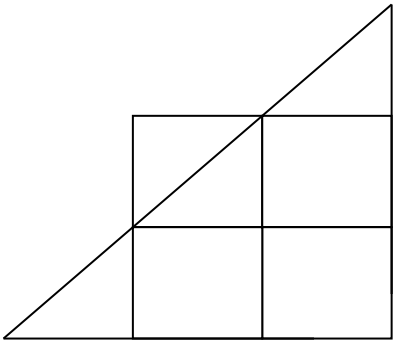

ĐỀ SỐ 17

Bài 1. Điền dấu(+ ; -):

5 □2 □2 = 1 5 □2 > 3 □ 1

5 □2 □2 = 5 5 □2 < 3 □ 1

Bài 2. Cho các số 28 ; 17 ; 9 ; 8 ; 10 ; 0 ; 90 ; 55 ; 72 ; 42.

a. Tìm trong dãy số trên: - Các số có 1 chữ số?.....

- Các số có 2 chữ số?.....

- Số nhỏ nhất có 2 chữ số là số nào?.....

- Số lớn nhất có 1 chữ số là số nào?.....

b. Xếp các số trên theo thứ tự lớn dần:.....

Bài 3.Tính:

50 + 30 = ... 90 - 40 = ... 29cm – 5cm = ...

27 + 2 =..... 15 + 2 - 3 = ... 87 - 2 - 4 =.....

Bài 4. Thứ tư của một tuần là ngày 11 trong tháng. Hỏi thứ năm của tuần liền sau là ngày nào trong tháng?

Bài giải

Bài 5. Nga và Lan hái được 49 bông hoa, riêng Lan hái được 2chục bông hoa. Hỏi Nga hái được bao nhiêu bông hoa?

Bài giải

Bài 6.

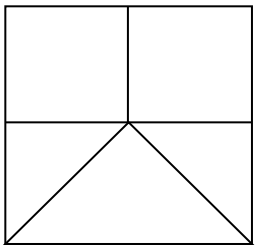

Hình vẽ bên có: …… hình tam giác

…… hình vuông

ĐỀ 18

Bài 1. Dấu: **>; <?**

22 + 2 + 3 ☐ 5 + 20 + 1 62 + 15 – 30 ☐ 62 + 30 – 42

Bài 2. Số?

☐ $\xrightarrow{-30}$ ☐ $\xrightarrow{+15}$ ☐ $\xrightarrow{-39}$ 0

Bài 3. Điền dấu (+, -) vào ô trống:

14 ☐ 5 ☐ 6 ☐ 3 = 10 18 ☐ 5 ☐ 4 ☐ 2 = 15

Bài 4. Em hãy cho biết có tất cả bao nhiêu số bé hơn 96 nhưng lớn hơn 72?

Đáp án:……..

Bài 5.Tính nhanh:

54 - 23 - 14 + 63 =

=.....

=.....

=.....

12 + 17 + 14 + 8 + 3 + 6 =

=.....

=.....

= ……

Bài 6.Tìm một số biết số đó trừ đi 32 rồi cộng với 23 được kết quả là 77.

.....

.....

Bài 7. Năm nay anh Hải 14 tuổi. Hỏi 3 năm trước anh Hải bao nhiêu tuổi? Bốn năm sau anh Hải có số tuổi là bao nhiêu tuổi?

Bài giải

ĐỀ 19

Bài 1. Điền số thích hợp vào ô trống:

8 □	□ 3	□ 2	5 □
+	+	-	-
□ 9	3 □	2 □	□ 3
9 9	7 8	7 0	2 5

Bài 2.Điền dấu +,- thích hợp vào ô trống:

a. 45 □ 40 □ 15 = 20 b. 75 □ 14 □ 18 = 71

c. 12 □ 23 □ 50 = 85 d. 99 □ 45 □ 14 = 40

Bài 3.Bình có 50 mươi viên bi, Bình cho bạn một số viên bi, Bình còn lại 30 viên bi. Hỏi Bình cho bạn bao nhiêu viên bi?

Bài giải

Bài 4. Điền số còn thiếu vào dãy số sau:

a. 1; 4; 7; …….; 19;22.

b. 24; 22; 20;……..…; 2; 0.

Bài 5. Em hãy đặt đề toán theo tóm tắt sau rồi giải bài toán đó.

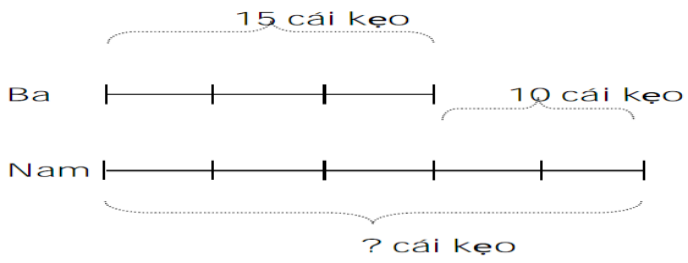

Bài giải

Bai 6. Vẽ sáu điểm sao cho có 4 điểm nằm trong hình tròn và 5 điểm nằm ngoài hình tam giác.

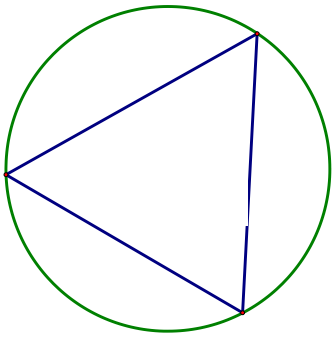

ĐỀ 20

Bài 1.Điền số vào ô trống:

10 $\xrightarrow{-8}$ ☐ $\xrightarrow{+6}$ ☐ $\xrightarrow{+2}$ ☐ $\xrightarrow{-6}$ ☐ ☐

Bài 2.Đúng: ghi Đ ; Sai: ghi S vào ô trống:

$\begin{array}{r} 17 \\ -\ 5 \\ \hline 12 \end{array}$ ☐ $\begin{array}{r} 19 \\ -\ 2 \\ \hline 13 \end{array}$ ☐ $\begin{array}{r} 16 \\ +\ \_\_ \\ \hline 18 \end{array}$ ☐ $\begin{array}{r} 36 \\ +\ \_\_ \\ \hline 13 \end{array}$ ☐

Bài 3.Tính:

a. 10 – 6 + 2 =.....

b. 8 + 2 – 6 =.....

c. 6 – 4 + 5 =.....

d. 10 – 7 + 6 =.....

Bài 4. Hình vẽ dưới đây có:

a. ..... đoạn thẳng

b. ..... hình tam giác

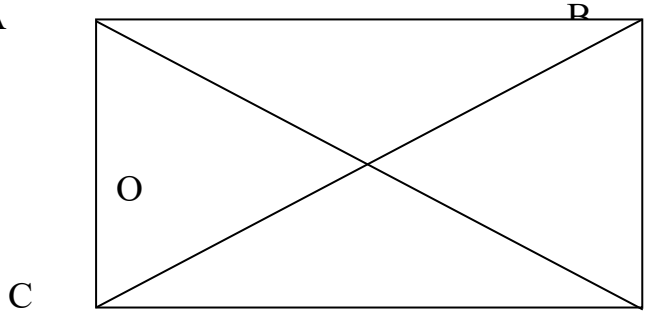

Bài 5. Cành trên có 10 con chim đang đậu, cành dưới có 5 con chim đang đậu. Có 1 con chim ở cành trên bay xuống đậu vào cành dưới. Hỏi cành trên còn mấy con chim? Cành dưới có mấy con chim?

Bài giải

Bài 6. Hà và Lan hái được 18 bông hoa, riêng Hà hái được 7 bông hoa. Hỏi Lan hái được bao nhiêu bông hoa?

Bài giải

ĐỀ 21

Bài 1. Điền dấu >, <,= vào ô trống (Viết kết quả phép tính để giải thích cách điền)

a. 61 + 36 ☐ 98 - 1

……. …….

b. 23 + 14 ☐ 32 + 6

…….. …….

c. 40 + 50 ☐ 99 – 8

……. …….

d. 89 – 27 ☐ 89 – 29

…… ……..

Bài 2. Tính nhanh:

a. 1 + 3 + 8 + 0 + 6 + 10 + 2

= ……

= ……

= ……

= ……

b. 17 + 14 + 2 + 8 - 7 - 4

= ……

= ……

= ……

= ……

Bài 3. Nối hai phép tính có cùng kết quả với nhau:

97 – 24	43 + 24	35 + 54
14 + 75	12 + 61	88 - 21

Bài 4. Nhà An nuôi vịt, ngan, ngỗng. Có 36 con vịt, số ngan ít hơn số vịt 6 con, số ngỗng ít hơn số ngan 10 con. Hỏi nhà An có tất cả bao nhiêu con vịt, ngan, ngỗng?

Bài giải

Bài 5. Số?

Hình bên có …. hình tam giác.

Hình bên có …. hình vuông.

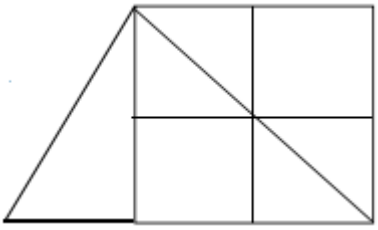

Bài 6. Điền số thích hợp vào ô trống sao cho cộng các số theo hàng ngang , theo cột dọc, theo đường chéo của hình vuông có các kết quả đều như nhau.

		14
	23	
32	14	

ĐỀ 22

I. Phần trắc nghiệm:

Bài 1. Điền số thích hợp vào ô trống:

8 □	□ 3
+□ 9	+3 □
9 9	7 8

Bài 2.Điền dấu (+, -) thích hợp vào chỗ trống

a. 45 □ 40 □ 15 = 20 b. 75 □ 14 □ 18 = 71

Bài 3. Một số có số liền trước là số 90 thì số đó là: …….....

Bài 4. Em hãy cho biết có tất cả bao nhiêu số bé hơn 96 nhưnglớn hơn 72

Đáp số: ……....

Bài 5. Ngày thứ năm tuần này là ngày 21. Thứ năm tuần sau là thứ: ……

Bài 6. Cho các số 1, 2, 3. Hỏi viết được bao nhiêu số có hai chữ số từ các số trên

Đáp số: …….....

Bài 7. Chú bạn Tú hỏi: "Năm nay cháu học lớp mấy rồi"? Tú đáp: "Lấy số nhỏ nhất có hai chữ số trừđi số lớn nhất có một chữ số thì ra lớp cháu đang học".Vậy Tú học lớp mấy?

Đáp số:.....

II. Phần tự luận:

Bài 1.Tìm một số biết rằng lấy số đó cộng với 42 rồi trừ đi 35 thì được kết quả bằng 31?

Bài giải

Bài 2.Dũng có một quyển sách. Dũng đã đọc hết 26 trang, còn 32 trang chưa đọc. Hỏi quyển sách của Dũng có bao nhiêu trang?

Bài giải

Bài 3. Hình vẽ dưới đây có..... hình tam giác

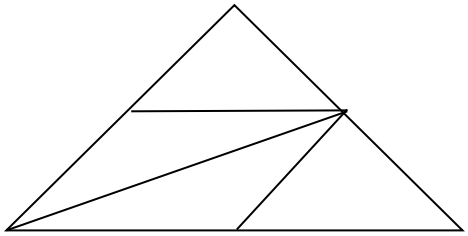

Bài 4: Cho các số 8, 4, 1 viết các số có hai chữ số

ĐỀ 23

Bài 1.Điền số thích hợp vào chỗ chấm:

14 là số liền trước của số……...

Số bé nhất có hai chữ số là……

81 là số liền sau của số ……

Ba chục que tính là …… que tính.

Bài 2.Tính:

12 + 5 – 3 =…… 29 – 4 + 5 =……

40 + 14 – 3 = …… 36 - 26 + 20 = ……

64 + 5 - 20 =…… 44 - 42 + 23 = ……

38cm – 6cm + 20cm = …… 40 cm + 7cm – 47cm = ……

Bài 3.a. Điền số hoặc dấu thích hợp vào ô trống:

80 - ☐ + 20 = 40 64 ☐ 53 ☐ 1 = 27 - 15

28 - 5 + 6 > 27 - 4 + ☐ 62 + 15 - 30 ☐ 62 + 30 - 42

74 - ☐ - 20 = 50 87 - ☐ > 65 ☐ 23

b. Tính bằng cách hợp lý nhất:

74 + 54 + 44 - 50 - 40 – 70

=.....

=.....

=.....

Bài 4. Hường có một quyển truyện, Hường đã đọc được 24 trang, số trang còn lại là số liền sau số 32. Hỏi quyển truyện dày bao nhiêu trang?

Bài 5. Hình bên có:

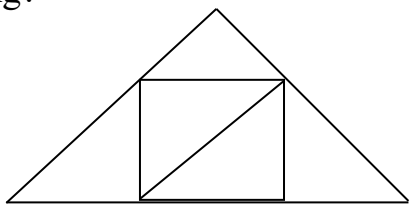

..... điểm

..... đoạn thẳng

..... tam giác

Bài 6. Số thay cho dấu "?":

			
4	6	6	?
			

Bài 7: Cho các số 3, 6, 2 viết các số có ba chữ khác nhau

.....
.

D. HƯỚNG DẪN GIẢI

BÀI TẬP THEO CHỦ ĐỀ

I. SỐ VÀ DÃY SỐ

1. Đọc, đếm, viết các số đến 100

Bài 1.

Bảy mươi tám: 78	Hai mươi tám: 28	Năm mươi tư: 54
Ba mươi: 30	Sáu mươi mốt: 61	Mười chín: 19
Bảy mươi chín: 79	Tám mươi ba: 83	Bảy mươi bảy: 77

Bài 2.

23 đọc là Hai mươi ba	55 đọc là Năm mươi lăm	57 đọc là Năm mươi bảy
19 đọc là Mười chín	80 đọc là Tám mươi	99 đọc là Chín mươi chín
75 đọc là Bảy mươi lăm	19 đọc là Mười chín	16 đọc là Mười sáu

Bài 3.

- 11, 22, 33, 44,55, 66, 77, 88, 99
- 10, 20, 30, 40, 50, 60, 70, 80, 90
- 15,25,35,45,55,65,75,85,95
- 30,31,32,33,34,35,36,37,38,39

Bài 4

a. 10; 12; 14; 16; 18; 20; 22

b. 1;3; 5; 7; 9; 11; 13; 15; 17

c. 3; 6; 9; 12; 15; 18; 21; 24

Bài 5

a. 80; 78; 76; 74; 72; 70. b. 99; 97; 95; 93; 91; 89,87

Bài 6.

a. 1; 3; 4; 7; 11; 18; 29 (lấy hai số liền kề cộng với nhau sẽ tạo ra số phía sau)

b. 0; 2; 4; 6; 12; 22;40; 74 (ba số liền kề nhau cộng lại tạo ra số phía sau)

c. 0 ; 3; 7; 12;18; 25; 33; 42 (lấy số liền trước lần lượt cộng thêm 3; 4; 5;…)

Bài 7:

- Từ 15 đến 27 có 13 số
- Có tất cả 9số tròn chục có hai chữ số.

- Có 6 số lẻ từ 26 đến 38

- Có 8số chẵn từ 35 đến 51

2. Thứ tự và so sánh các số:

Bài 1.

a. Từ 11 đến 20: 11; 12;13; 14; 15;16;17; 18;19; 20.

b. Từ 21 đến 30: 21; 22; 23; 24; 25; 26;27; 28; 29; 30.

c. Từ 48 đến 54:48; 49; 50; 51; 52; 53; 54.

d. Từ 69 đến 78: 69; 70; 71; 72; 73; 74; 75; 76; 77; 78.

e. Từ 89 đến 96: 89; 90; 91; 92; 93; 94; 95; 96.

Bài 2.

a. Từ lớn đến bé: 76; 74; 54; 28

b. Từ bé đến lớn: 28; 54; 74; 76

Bài 3. a. Khoanh vào số ***bé nhất:***

57 34 76 28

b. Khoanh vào số ***lớn nhất:***

88 39 54 58

c. - Số liền sau của 23 là 24 Đ - Số liền sau của 84 là 83 S

- số liền sau của 79 là 70S - Số liền sau của 98 là 99 Đ

- Số 78 là số liền trước của số 77 S - Số 50 là số liềnsau số 49 Đ

Bài 4. Viết vào mỗi vạch của tia số:

a.

.....0.....1.....2.....3.....4.....5.....6.....7.....8.....9.....10.....

b.

.....0.....10.....20.....30.....40.....50.....60.....70.....80.....90.....100.....

c.

.....81.....82.....83.....84....85.....86.....87....88.....89....90....91.....

Bài 5.

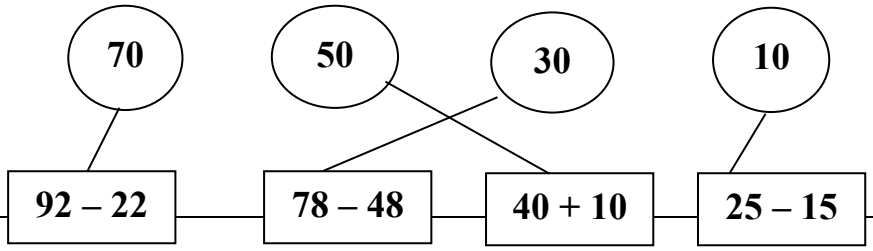

Bài 6.

Số liền trước	Số đã cho	Số liền sau
48	49	50
79	80	81
70	71	72

Bài 7.

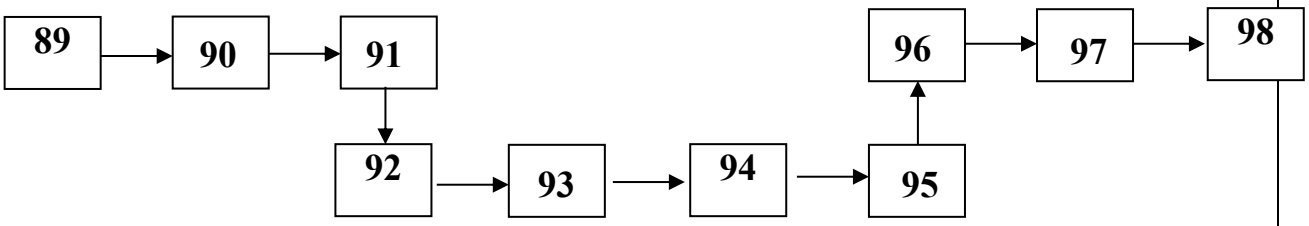

Bài 8.

70	71	72	73	74	75	76	77	78	79
80	81	82	83	84	85	86	87	88	89
90	91	92	93	94	95	96	97	98	99

Bài 9.

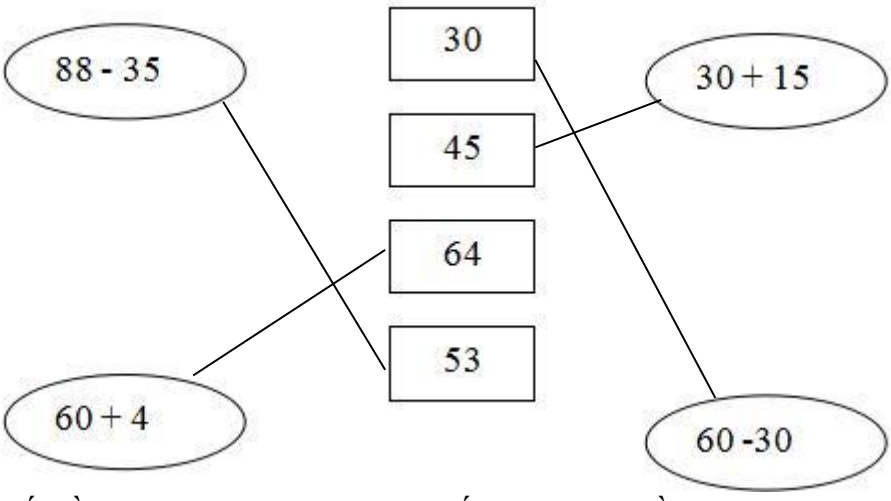

Bài 10. - Số liền trước 60 là: 59 Số tròn chục liền trước 35là: 30

- Số bé nhất có 2 chữ sốlà:10 Số lớn nhất có 2 chữ sốlà: 99
- Số liền sau 37là: 38 Số tròn chục liền sau 54là: 60

Bài 11. Viết:

- Số lẻ bé nhất có hai chữ sốlà:11
- Số chẵn lớn nhất có hai chữ sốlà: 98
- Số tròn chục lớn nhất có hai chữ sốlà: 90

- Số tròn chục bé nhấtlà: 10
- Số lẻ liền sau số 15 là 17
- Số chẵn liền trước số 78 là : 76

3. Cấu tạo số và giá trị vị trí của các chữ số

Bài 1. Số 72 gồm 7 chục và 2 đơn vị; 72 = 70 + 2

Số 84 gồm 8 chục và 4 đơn vị; 84 = 80 + 4

Số 85 gồm 8 chục và5 đơn vị; 85 = 80 + 5

Số 98 gồm 9 chục và 8 đơn vị; 98 = 90 + 8

Số 89 gồm 8 chục và 9 đơn vị; 89 = 80 + 9

Bài 2. Đúng: ghi Đ – Sai: ghi S rồi viết lại cho đúng

Mười sáu 106	Sáu 6	Sáu mươi 610	Ba mươi 30	Ba 3	Ba mươi ba 303
S	Đ	S	Đ	Đ	S
16		60			33

Bảy mươi 70	Tám mươi lăm 85	Chín mươi mốt 30	Năm một 51
Đ	Đ	S	S
		91	Năm mươi mốt

Số 64 gồm 6 và 4 64	Số 64 gồm 6 chục và 4 đơn vị 64
S	Đ
Số 64 gồm 6 chục và 4 đơn vị	

Số 64 gồm 60 và 4 64	64 = 60 + 4 64
S	Đ
Số 64 gồm 6 chục và 4 đơn vị	

Bài 3. 24, 42

Bài 4. 98, 95, 90, 89, 85,80, 59, 59, 50

Bài 5. Cho 3 chữ số:3,5,6 .

a.35,36,53,56,63,65

b. Lập được tất cả 6 số.

c. Số lớn nhất trong các số vừa lập là 65

Số bé nhất trong các số vừa lập là 35

Bài 6. a.60, 67, 70,76

b. Viết các số vừa lập theo thứ tự tăng dần: 60, 67, 70,76

c. Viết các số vừa lập theo thứ tự giảm dần:76, 70, 67, 60.

II. PHÉP CỘNG VÀ PHÉP TRỪ TRONG PHẠM VI 100

Bài 1.

Bài 1. Nối phép tính với kết quả (theo mẫu):

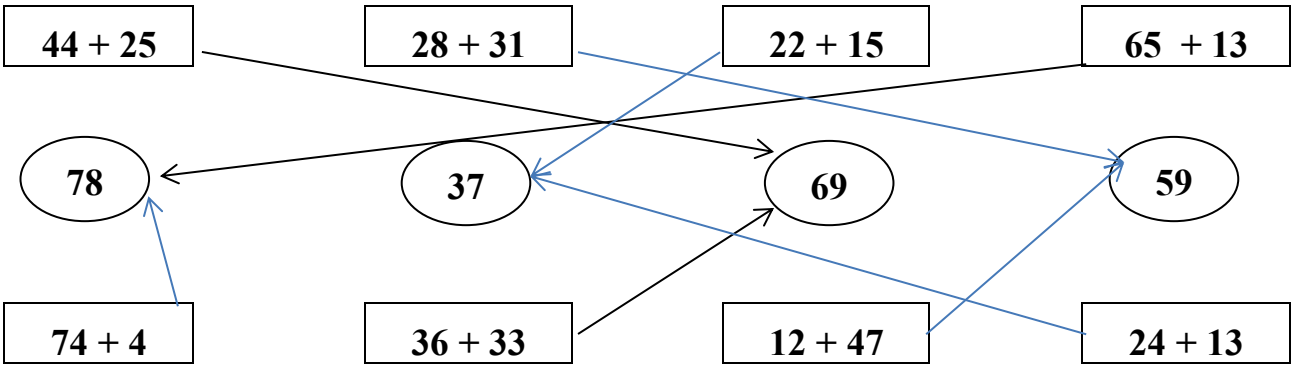

Bài 2.

82+ 11 = 93	83 + 15 = 98	82 + 13 = 95	18 + 41 = 59	17 + 52 = 69
18 + 21 = 39	38 + 61 = 99	61 + 13 = 74	17 + 22 = 39	80 + 10 = 90

Bài 3.

2 4	4 3	1 8	4 3	2 2
+	+	+	+	+
5 5	2 4	7 1	5 5	3 7
7 9	6 7	8 9	9 8	5 9

Bài 4.

3 2	2 3	5 2	7 3	4 4
+	+	+	+	+
4 2	3 6	1 6	2 4	5 3
7 4	5 9	6 8	9 7	9 7

5 9	7 9	6 8	7 5	6 7
-	-	-	-	-
2 6	3 4	1 3	5 4	4 3
3 3	4 5	5 5	2 1	2 4

Bài 5.

42 + 26 = 68	70cm + 5cm = 75cm	73 – 60 + 3 = 10
87 – 70 = 17	83cm – 22cm = 61cm	62 + 3 + 20 = 85
68 – 48 = 20	29cm – 9cm = 20cm	57 – 7 + 23 = 73

Bài 6. 40 + 8 = 48 37 + 30 = 67 53 + 6 = 59

72 - 60 = 12 49 - 49 = 0 75 = 40 + 35

Bài 5. 6; 9; 1; 10; 5

Bài 6. 85

Bài 7. 42

Bài 3.

7 = 7 + 0 = 6 + 1 = 5 + 2 = 4 + 3

a.Số có hai chữ số sao cho khi cộng 2 chữ số đó lại thì được 7 là:

70; 61; 16; 52; 25; 43; 34.

b.Các cặp số tròn chục sao cho khi lấy số lớn trừ đi số bé thì được 40 là:

90, 50; 80, 40; 70, 30; 60, 20; 50,10

III. SO SÁNH

Bài 1.

66 – 6 = 68 – 8 42 + 45 = 98 – 11

43 + 30 <98 – 12 54 – 30 < 64 – 34

36 + 23 > 75 – 21 78 – 43 >74 – 43

Bài 2.

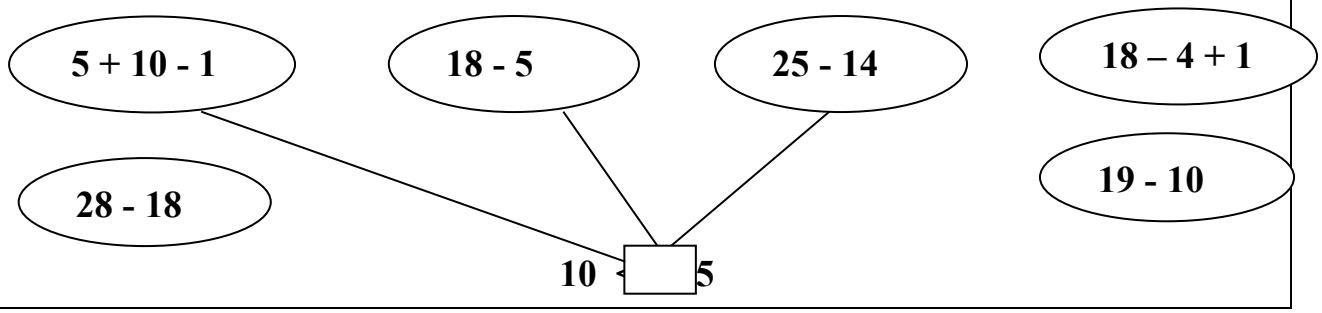

IV. TOÁN CÓ LỜI VĂN

Bài 1.

Tóm tắt	Bài giải
Lan hái : 14 bông hoa	Cả hai bạn hái được số bông hoa là:
Thanh hái: 5 bông hoa	14 + 5 = 19 (bông)
Cả hai :…bông hoa ?	Đáp số: 19 bông hoa

Bài 2.

Tóm tắt	Bài giải
Dũng có: 30 nhãn vở	Dũng đã cho bạn số cái nhãn vở là:
Còn lại : 20 nhãn vở	30 -20 = 10 (nhãn)
Cho bạn: …nhãn vở ?	Đáp số: 10nhãn vở

Bài 3.

Tóm tắt	Bài giải
Cho : 5quyển sách	Hỏi Lan có số quyển sách là:
Còn lại :12quyển sách	5 + 12 = 17 (quyển)
Có: …..quyển sách?	Đáp số: 17 quyển sách

Bài 4.

Tóm tắt	Bài giải
Có : 17 hòn bi	Anh còn số hòn bi là:
Cho :5 hòn bi	17-5 = 12 (hòn bi)
Còn lại :…hòn bi?	Đáp số: 12 hòn bi

Bài 5.

Tóm tắt	Bài giải
Vịt : 6 con	Nhà bạn Nam có tất cả số con vịt và con ngan là:
Ngan : 12 con	6 +12 = 18 (con)
Tất cả : …con?	Đáp số: 18 con

Bài 6.

Tóm tắt	Bài giải
Nam : 20 học sinh	Lớp có tất cả số học sinh là:
Nữ : 16 học sinh	20 + 16 = 36 (học sinh)
Tất cả : …. học sinh?	Đáp số: 36 học sinh

Bài 7.

Tóm tắt	Bài giải
Anh : 30 que tính	Đổi: 2 chục = 20
Em : 2 chục que tính	Anh và em có tất cả số que tính là:
Cả hai : ….que tính?	30 + 20 = 50 (que tính)
	Đáp số: 50que tính

Bài 8.

Tóm tắt	Bài giải
Lớp 1A : 40 học sinh	Đổi: 3 chục = 30
Lớp 1B : 3 chục học sinh	Cả hai lớp có số học sinh là:

Cả hai : …học sinh?

40 + 30 = 70 (học sinh)
Đáp số: 70 học sinh

Bài 9.

Tóm tắt
Mảnh 1 : 32cm
Mảnh 2 : 60cm
Cả hai : …cm?

Bài giải
Thanh gỗ lúc đầu dài số xăng ti mét là:
32 + 60 = 92 (cm)
Đáp số: 92 cm

Bài 10.

Tóm tắt
Tháng trước : 20 ngày công
Tháng này : 22 ngày công
Cả hai : …ngày công?

Bài giải
Số ngày công bố làm được trong hai tháng là:
20 + 22 = 42 (ngày)
Đáp số: 42 ngày công

Bài 11.

Tóm tắt
Có : 5 chục con
Bán : 10 con
Bán : 10 con
Còn lại : …con lợn?

Bài giải
Đổi: 5 chục = 50
Nhà bác còn số con lợn là:
50 – 10 – 10 = 30 (con)
Đáp số: 30 con lợn

Bài 12.

Tóm tắt
Lớp 2A: 15 học sinh giỏi
Lớp 2B : ít hơn 4 học sinh giỏi
Cả hai :…học sinh giỏi?

Bài giải
Số học sinh giỏi của lớp 2B là:
15 – 4 = 11 (học sinh)
Cả hai lớp có số học sinh giỏi là:
15 + 11 = 26 (học sinh)
Đáp số: 26 học sinh giỏi

Bài 13.

Bài giải
Số liền trước của 13 là 12. Vậy Hà có 12 viên bi
Cả ba bạn có số viên bi là:
23 + 30 + 12 = 65 (viên)
Đáp số: 65 viên bi

Bài 14.

Bài giải
Đoạn thẳng AC còn lại số xăngtimét là:
15 - 5 = 10 (cm)
Đáp số: 10 cm

Bài 15:

Bài giải
Đoạn thẳng BC dài số xăngtimét là:
54 - 30 = 24 (cm)
Đáp số: 24 cm

Bài 16.

Bài giải

Tất cả có số quả bóng là:

8 + 5 = 13 (quả)

Đáp số: 13 quả bóng

Bài 17.

Bài giải

Số con vịt là:

13 + 12 = 25 (con)

Tất cả có số con gà và vịt là:

13 + 25 = 38 (con)

Đáp số: 38 con gà và vịt

Bài 18.

Bài giải

Cách 1:

Tuổi của Việt 4 năm trước là:

14 – 4 = 10 (tuổi)

Tuổi của Nam 4 năm trước là:

15 – 4 = 11 (tuổi)

Trước đây 4 năm tuổi tổng số tuổi của Việt và Nam là:

11 + 10 = 21 (tuổi)

Đáp số: 21 tuổi

Cách 2:Trước đây 4 năm tuổi tổng số tuổi của Việt và Nam là:

14 + 15 – 4 – 4= 21 (tuổi)

Đáp số: 21 tuổi

Bài 19.

Bài giải

Tổng số tuổi của cả ba mẹ con Mai hiện nay là:

12 + 6 + 40 = 58 (tuổi)

Tổng số tuổi của cả ba mẹ con Mai hai năm trước là:

58 – 2 – 2 – 2 = 52 (tuổi)

Đáp số: a. 58 tuổi

b. 52 tuổi

V. THỜI GIAN

Bài 1.

Nếu hôm nay là thứ năm ngày 14 thì

hôm qua là thứ tư ngày13,

hôm kia là thứ ba ngày12,

ngày mai là thứ sáu ngày 15,

ngày kia là thứ bảy ngày 16

Bài 2. a, 1 ngày b, 3 giờ

Bài 3. a. Em về nhà lúc : 7 +4 = 11 (giờ)

b. Xe khởi hành lúc : 11 - 3 = 8 (giờ)

……..

VI. HÌNH HỌC

Bài 1.

- 3 hình vuông là: ABHE, BCDH, EBDG
- 6 hình tam giác là: ABE, EBH, BCD, BDH, EBD, EDG

Bài 2.

- Vẽ 3 điểm ở trong hình tam giác.
- Vẽ 3 điểm ở ngoài hình tam giác.

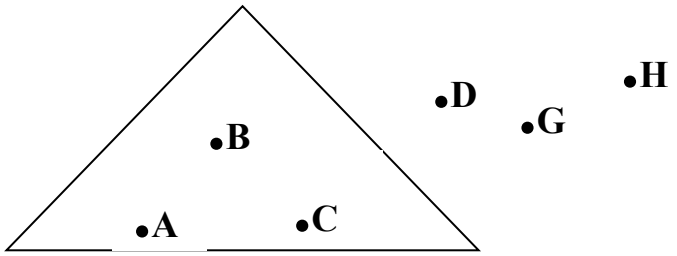

Bài 3.

a. 3 hình vuông; 6 hình tam giác.

b. 3 hình vuông; 17 hình tam giác.

c. 2 hình vuông; 6 hình tam giác.

Bài 4. Mỗi hình vẽ dưới đây có bao nhiêu đoạn thẳng?

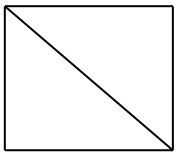

Có 5 đoạn thẳng

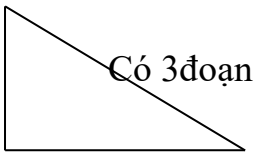

Có 3đoạn thẳng

Bài 5.

a.

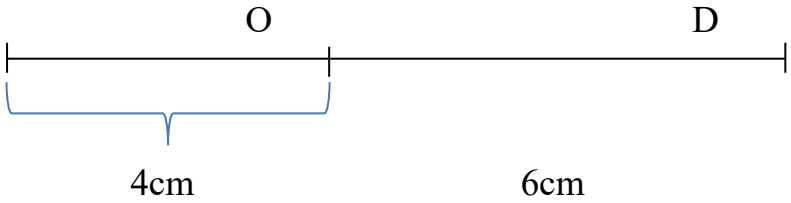

b. Độ dài đoạn thẳng CD trong hình vẽ trên là: 4cm + 6cm = 10cm

Bài 6.

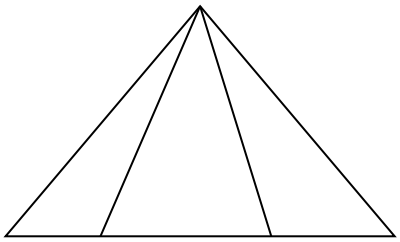

VII. TOÁN TƯ DUY

Bài 1.

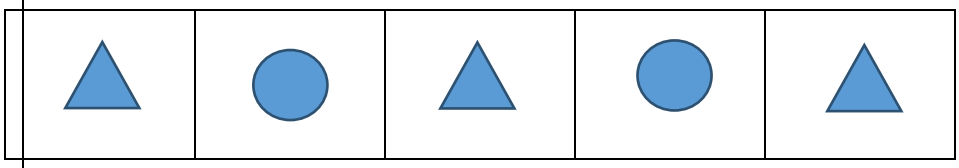

Bài 2.

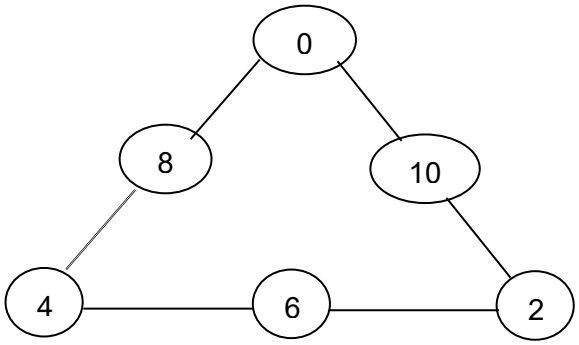

Bài 3.

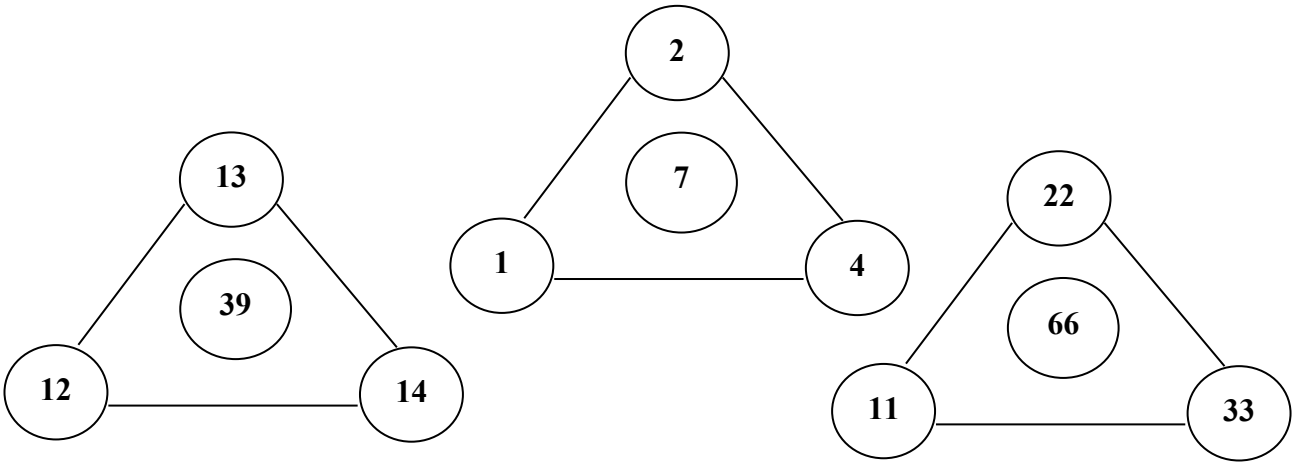

Bài 4.Số thay cho dấu "?" là số 1

Bài 5. A. 45 b. 15

Bài 6. Điền vào chỗ chấm:

= 3 = 4 = 6

Bài 7. Hộp nặng nhất là hộp 1

Bài 8.

Cần cân ít nhất 2 lần.

Lần 1: Đặt lên mỗ bên cân 2 đồng, nếu bằng nhau đồng tiền ở ngoài là giả; Nếu 1 bên nhẹ hơn sẽ có 1 đồng tiền giả.

Lần 2: Đặt 2 đồng tiền nhẹ hơn lên cân, mỗi bên 1 đồng tiền; Nếu bên nào nhẹ hơn bên đó là đồng tiền giả.

Bài 9.

3	2	5	3	2	5	3	2	5	3	2

Bài 10.

a.

4	3	2	4	3	2	4	3	2	4

b.

3	4	2	3	4	2	3	4	2	3

ĐÁP ÁN 23 ĐỀ

ĐÁP ÁN ĐỀ SỐ 1

Bài 1. a. 60; 61; 62; 63, 64; 65; 66; 67; 68; 69; 70

71; 72; 73; 74; 75; 76; 77; 78; 79; 80

b. Bốn mươi ba: 43 Ba mươi hai: 32

Chín mươi bảy: 97 Hai mươi tám: 28

Sáu mươi chín: 69 Tám mươi tư: 84

Bài 2.

a.

4 5	5 6	1 8	7 4
+	-	+	-
3 4	2 0	7 1	3
7 9	3 6	8 9	7 1

b. 58cm + 40cm = 98cm 57 + 2 - 4 = 55

Bài 3.

> < = ?	63	>	60	65	>	48	88 - 45	=	63 - 20
	19	>	17	54	<	72	49 - 2	<	94 - 2

Bài 4. Bài giải

Mẹ còn lại số quả hồng là:

85 – 60 = 25 (quả)

Đáp số: 25 quả hồng

Bài 5.

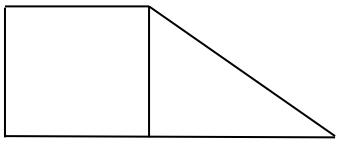

Bài 6.

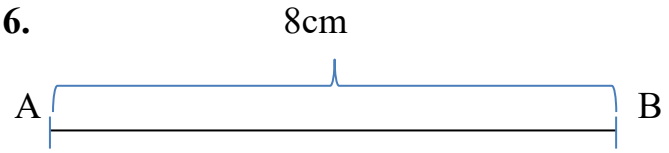

Bài 7. 2 giờ 8 giờ

ĐÁP ÁN ĐỀ SỐ 2

Bài 1.

a. Năm mươi tư: 54 Mười xăng ti mét: 10cm

Bảy mươi mốt**:** 71 Một trăm: 100

b. 81; 38; 73; 62; 38

Bài 2.

3	9 9	5 4	6 5
+	-	+	-
6 3	4 8	4 5	2 3
6 6	5 1	9 9	4 2

Bài 3. 5 giờ 12 giờ

Bài 4.

>	27	<	31	94 - 4	>	80	56 - 14	>	46 - 14
< ?									
=	99	<	100	18	>	20 - 10	25 + 41	=	41 + 25

Bài 5.

Bài giải

Lớp em có tất cả số học sinh là:

24 + 21 = 45 (học sinh)

Đáp số: 45 học sinh

Bài 6.

 = 3 = 4  = 1

ĐÁP ÁN ĐỀ SỐ 3

Bài 1.

a. 89, 90, 91, 92, 93, 94, 95,96, 97, 98, 99,100

b. Số liền trước của 99 là 98; 70 gồm 7 chục và 0 đơn vị

Số liền sau của 99 là 100; 81 gồm 8 chục và 1 đơn vị

Bài 2.

a. 3 + 36 = 39 45 – 20 = 25 50 + 37 = 87 99 – 9 = 90

b.

2 3	5 8	4 3	5 6
+	-	+	-
6 3	1 6	3 6	3 6
8 6	4 2	7 9	2 0

Bài 3. 79 > 74 56 = 50 + 6 60 < 95 32 – 2 < 32 + 2

Bài 4. 3 hình tam giác 3hình vuông

Bài 5.

Bài giải

Vườn nhà em có số cây bưởi là:

26 - 15 = 11 (cây)

Đáp số: 11 cây bưởi

Bài 6.Số đó là 10 – (8 - 3) = 5

Bài 7.

= 6 = 4 = 3

ĐÁP ÁN ĐỀ SỐ 4

Bài 1.

5 6	7 2	4	6 5
+	-	+	-
4 3	1 2	8 2	2 3
9 9	6 0	8 6	4 2

Bài 2. 40 + 20 – 40 = 20 38 – 8 + 7 = 37

55 – 10 + 4 = 49 25 + 12 + 2 = 39

25cm + 14cm = 39cm 56cm – 6cm + 7cm = 57cm

48 cm + 21cm = 69cm 74cm – 4cm + 3cm = 73cm

Bài 3. Bài giải

Nam có số viên bi đỏ là:

36 - 14 = 22 (viên bi)

Đáp số: 22 viên bi đỏ

Bài 4. Bài giải

Cửa hàng còn lại số quyển vở là:

95 - 40 = 55 (quyển)

Đáp số: 55 quyển vở

Bài 5. Bài giải

Lan còn phải đọc số trang nữa thì hết quyển sách là:

65 - 35 = 30 (trang)

Đáp số: 30 trang sách

Bài 6. Số đó là: 10- 4 + 2 = 8

ĐÁP ÁN ĐỀ SỐ 5

Bài 1.

31 + 14 = 45	36 – 21 = 15	87 + 12 = 98
14 + 31 = 45	36 – 15 = 21	87 – 12 = 75
62 + 3 = 65	55 – 2 = 53	90 + 8 = 98
62 + 30 = 92	55 – 20 = 35	90 – 80 = 10

Bài 2. 50 + 0 = 50 49 – 9 = 40 49 – 40 = 9

40 + 0 = 40 75 = 70 + 5 60 – 10 > 40

(3 ý cuối học sinh có thể điền đáp án đúng khác)

Bài 3.

a. - Ngày hôm qua là thứ ba - Ngày mai là thứ năm

- Ngày hôm kia là thứ hai - Ngày kia là thứ sáu

b. Thứ năm là ngày 13, tháng 5 Thứ 3, ngày 11, tháng 5

Bài 4. Bài giải

Đổi: 1 tuần lễ = 7 ngày

Lan đã ở quê tất cả số ngày là:

7 + 3 = 10 (ngày)

Đáp số: 10 ngày

Bài 5. 10cm

Bài 6. Số đó là: 2 + 5- 3 = 4

ĐÁP ÁN ĐỀ SỐ 6

Bài 1. a. Năm mươi: 50 Ba mươi mốt: 31

b. 78: Bảy mươi tám 99: Chín mươi chín

c. 91 d. 78 ; 87 ; 91 ; 96

Bài 2.

a.

6	3 7	6 6	8 9
+	-	+	-
5 2	2 5	2 2	7 7
5 8	1 2	8 8	1 2

b.

35 + 40 – 75 = 75 - 75
= 0

94 – 14 + 4 = 80+ 4
= 84

80cm + 10 cm = 90cm

35cm – 20cm =15cm

Bài 3.Bài giải

Trong vườn có số cây táo là:

65 - 45 = 20 (cây)

Đáp số: 20 cây táo

Bài 4.Bài giải

Nhà Lan nuôi tất cả số con gà và vịt là:

24 + 25 = 49 (con)

Đáp số: 49 con gà và vịt

Bài 5.

- Ngày mai là thứ tư ngày 6 tháng 5 - Ngày hôm qua là thứ hai ngày 4 tháng 5

- Ngày kia là thứ năm ngày 7 tháng 5 - Ngày hôm kia là chủ nhật ngày 3 tháng 5.

Bài 6. B

ĐÁP ÁN ĐỀ SỐ 7

Bài 1.

a. 89, 90, 91, 92, 93, 94, 95, 96, 97, 98, 99, 100

b. Số liền trước của 80 là 79; 46 gồm 4chục và 6 đơn vị

Số liền sau của 99 là 100 ; 70 gồm 7 chục và 0 đơn vị

c. 10, 20, 30, 40, 50, 60, 70, 80, 90

Bài 2. a. 3 + 36 = 39 45 – 20 = 25 50 + 37 = 87

99 – 9 = 90 17 – 16 = 1 3 + 82 = 85

17 + 14 – 14 = 17 38 cm – 10cm = 28 cm

b.

5 1	7 8	8 4	9 1
+	-	-	+
2 7	3 6	4	7
7 8	4 2	8 0	9 8

Bài 3. 39 < 74 89 < 98 56 = 50 + 6

68 > 66 99 < 100 32 – 2 < 32 + 2

Bài 4. Bài giải

Đoạn dây còn lại dài số xăng ti mét là:

18 - 5 = 13 (cm)

Đáp số: 13 cm

Bài 5.

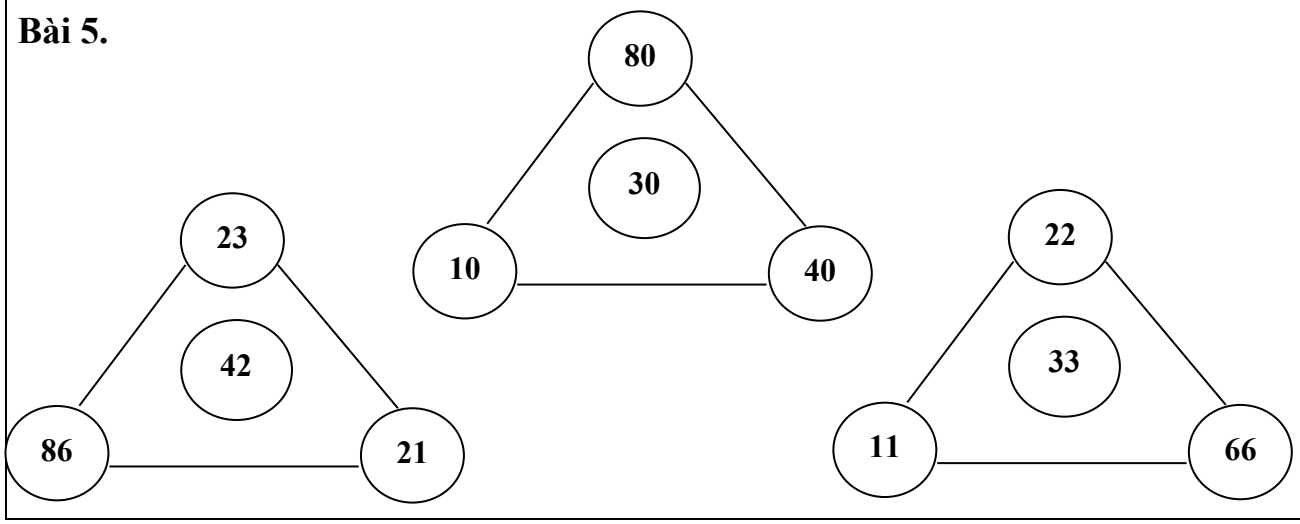

ĐÁP ÁN ĐỀ SỐ 8

Bài 1.

2 4	5 2	7 7	6 8
+	+	-	-
3 5	3 6	4 3	3 5
5 9	8 8	3 4	3 3

Bài 2.

>	65	>	56	84 - 12	>	67	76 - 14	>	64 - 11
< ?									
=	34	<	38	18	<	36 - 13	55 + 11	=	11 + 55

Câu 3: 7 giờ; 9 giờ

Bài 4. a.Từ lớn đến bé: 71, 40, 38, 25

b. Từ bé đến lớn: 25, 38, 40, 71

Bài 5. Bài giải

Cả hai lớp có số học sinh là:

24+ 21 = 45 (học sinh)

Đáp số: 45 học sinh

Bài 6. 2 hình chữ nhật 2 hình tam giác

ĐÁP ÁN ĐỀ SỐ 9

Phần 1:

1. C **2. B** **3. B** **4. C**

Phần 2:

1. Tính

+ 56	− 97	+ 4	− 68
43	25	31	4
99	72	35	64

2. 27cm – 21cm < 8cm 34cm + 52cm = 52cm + 34cm

41cm + 8cm > 45cm 13cm + 43cm > 42cm + 13cm

3.

Số liền trước	Số đã biết	Số liền sau
79	80	81
48	49	50
98	99	100
60	61	62

4. Bài giải

Lớp 1A có số bạn nam là:

36 - 10 = 26 (bạn)

Đáp số: 26 bạn nam

5.

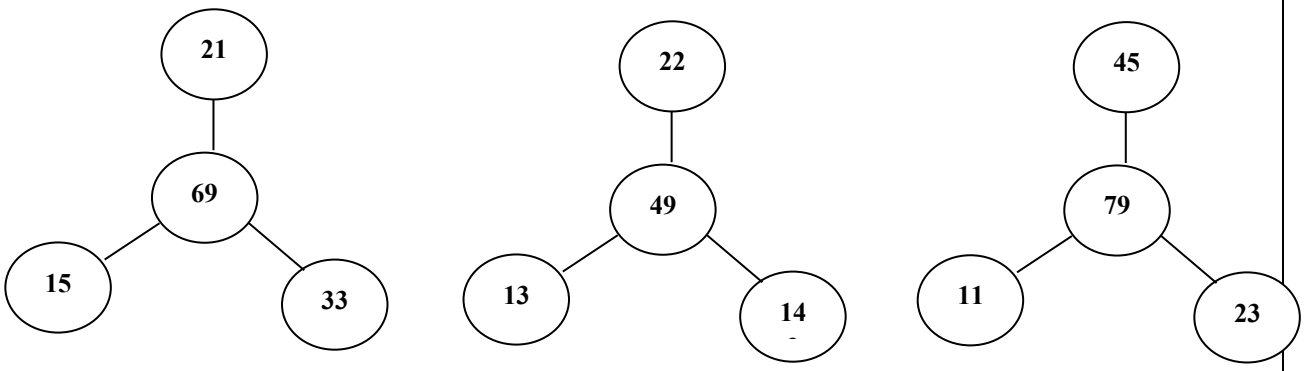

ĐÁP ÁN ĐỀ SỐ 10

Bài 1. a. 96 b. 48

Bài 2. a. B b. D

Bài 3.

a. S c. Đ

b. Đ d. S

Bài 4.

2 6	5 2	6 8	7 5
+	+	-	-
6 3	3 7	3 1	4 5
8 9	8 9	3 7	3 0

Bài 5. Bài giải

Đổi 2 chục = 20

Còn số trang Lan chưa đọc là:

37 - 20 = 17 (trang)

Đáp số: 17 trang sách

Bài 6. Bài giải

Số hình tròn không tô màu là:

37 - 24 = 13 (hình)

Đáp số: 13 hình tròn

Bài 7.

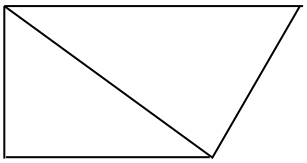

ĐÁP ÁN ĐỀ SỐ 11

Bài 1. 1. B 2. C

Bài 2. Nối theo mẫu:

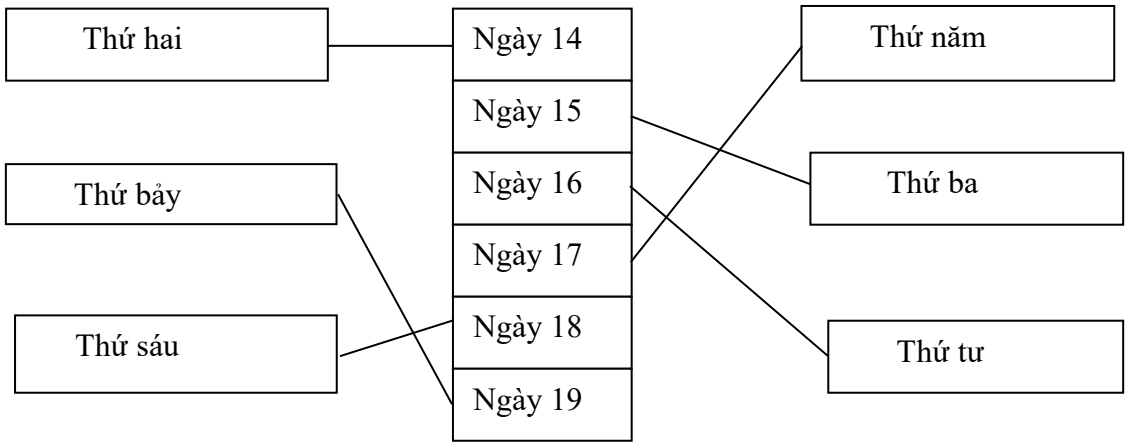

Bài 3. 100 > 10 95 > 59

15 < 41 34 < 60

20 = 20 22 > 11

Bài 4.

3 9	5 6	4 7	4 2
-	-	+	+
3 3	1 1	5 2	2 4
0 6	4 5	9 9	6 6

Bài 5. Tính:

4 + 14 + 1 = 19 85 - 2 - 2 = 81

41 + 41 + 12 = 94 45 - 25 + 25 = 45

Bài 6. Bài giải

Mẹ mua số quả táo là:

5 + 4 + 10 = 19 (quả)

Đáp số: 19 quả táo

ĐÁP ÁN ĐỀ SỐ 12

Bài 1.

a.

70	71	72	73	74	75	76	77	78	79	80

b. 53: Năm mươi ba 30: Ba mươi 60: Sáu mươi

Tám mươi tư: 84 Bảy mươi ba: 73 Hai mươi mốt: 21

c. - Theo thứ tự từ bé đến lớn: 20, 27, 55, 63

- Theo thứ tự từ lớn đến bé:63, 55, 27, 20

Bài 2. a. 15 + 3 - 4 = 14 50 cm + 30 cm = 80cm

80 - 40 + 20 = 60 13 cm + 5 cm - 7 cm = 11cm

b.

$$\begin{array}{r} 62 \\ +\ 15 \\ \hline 77 \end{array} \qquad \begin{array}{r} 75 \\ -\ 33 \\ \hline 42 \end{array} \qquad \begin{array}{r} 42 \\ +\ 20 \\ \hline 62 \end{array} \qquad \begin{array}{r} 86 \\ -\ 36 \\ \hline 50 \end{array}$$

Bài 3. 75 > 23 + 34 20 + 35 < 56

86 - 25 > 51 67 - 7 = 90-30

Bài 4.

20+ 10 > 20 35 - 0 = 35

10 + 30 < 50 20 + 10 > 20

(Học sinh có thể điền kết quả đúng khác)

Bài 5:

Bài giải

Nhà An nuôi được số con gà là:

38 - 12 = 26 (con)

Đáp số: 26 con gà

Bài 6:

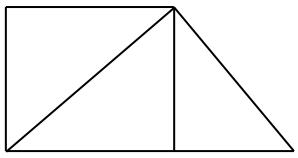

ĐÁP ÁN ĐỀ SỐ 13

Bài 1. a. 67

b. 12

Bài 2. 25 + 0 = 25 45 – 12 = 33 12 + 23 = 35 89 – 34 = 55

Bài 3.

$$\begin{array}{r} 45 \\ +\ 21 \\ \hline 66 \end{array} \qquad \begin{array}{r} 58 \\ -\ 35 \\ \hline 23 \end{array} \qquad \begin{array}{r} 47 \\ +\ 52 \\ \hline 99 \end{array} \qquad \begin{array}{r} 64 \\ -\ 42 \\ \hline 22 \end{array}$$

Bài 4.

a. 10cm

b.

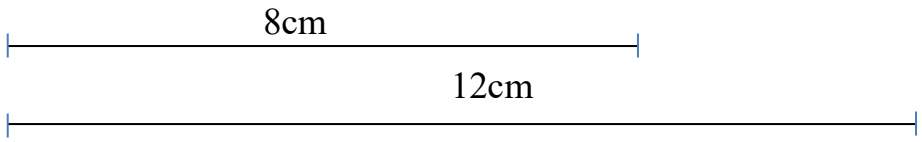

Bài 5.

Bài giải

Cả ngày cửa hàng bán số mét vải là:

45 + 12 = 57(mét)

Đáp số: 57 mét vải

Bài 6. Có1hình vuông Có 5 hình tam giác

ĐÁP ÁN ĐỀ SỐ 14

Bài 1.

a. Ba mươi chín: 39 Sáu mươi hai: 62

Năm mươi lăm: 55 Bốn mươi tám: 48

Tám mươi tám: 88 Chín mươi bảy: 97

b. - Từ lớn đến bé: 90,72, 58, 54, 36, 25

- Từ bé đến lớn: 25, 36, 54, 58, 72, 90

c.

Số liền trước	Số đã biết	Số liền sau
39	40	41
74	75	76
88	99	100

Bài 2.

a. 15 + 4 – 8 = 11 80 cm – 50 cm = 30cm

18 – 6 + 3 = 15 40 cm + 20 cm = 60cm

b.

$$\begin{array}{r} 35 \\ +\ 12 \\ \hline 47 \end{array} \quad \begin{array}{r} 85 \\ -\ 43 \\ \hline 42 \end{array} \quad \begin{array}{r} 60 \\ +\ 15 \\ \hline 75 \end{array} \quad \begin{array}{r} 78 \\ -\ 38 \\ \hline 40 \end{array}$$

Bài 3. 19 – 4 < 25 30 + 40 < 60 + 20

40 + 15 < 58 42 + 5 < 58 - 8

Bài 4. Bài giải

Lan có số quyển sách là:

5 + 12 = 17 (quyển)

Đáp số: 17 quyển sách

Bài 5. 2hình vuông; 5hình tam giác

Bài 6. Khoanh vào chữ đặt trước câu trả lời đúng:

1. B 2. C

ĐÁP ÁN ĐỀ SỐ 15

Bài 1.

a.

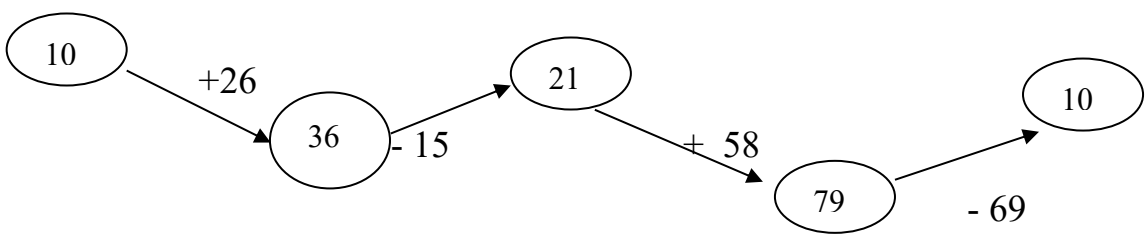

b. 19 - 5 + $\boxed{0}$ = 14

c.

17	20	23	26	29	32

Bài 2. 1+ 1 +1+ 1 + 1+ 1 = 6 1+ 1+ 1 + 1 +1 - 1 = 4

1+ 1 + 1 + 1 - 1 - 1 = 2 1 - 1 + 1 - 1+ 1 - 1 = 0

(Học sinh có thể có đáp án đúng khác)

Bài 3. 75 > 23 + 34 20 + 35 < 56

86 - 25 > 51 67 – 7 = 90 – 30

Bài 4.

20 + 10 > 20 35 - 0 = 35

10 + 30 < 50 20 + 10 > 20

(Học sinh có thể có đáp án đúng khác)

Bài 5.

2	1	3	2	1	3	1	2	3	1	2	3

Bài 6.Bài giải

Vì 5 < 6 < 7 nên Minh 6 tuổi.

Chị của Minh có số tuổi là:

6 + 4 = 10 (tuổi)

Đáp số: 10 tuổi

ĐÁP ÁN ĐỀ SỐ 16

Bài 1.

a. 70 ; 71 ; 72 ; 73 ; 74 ; 75; 76 ;

48 ; 49 ; 50 ; 51 ; 52 ; 53 ; 54

b. Ba mươi tư: 34 Năm mươi ba: 53 Hai mươi lăm: 25 Một trăm: 100

c. 94 ;87; 78; 49

Bài 2. Số?

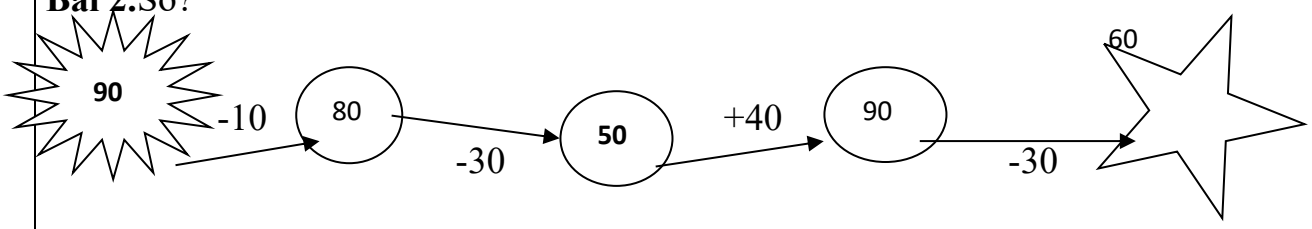

Bài 3. 13 + 4 - 5 = 12 24cm – 4cm = 20cm

26 – 5 + 8 = 29 40cm + 7cm – 37cm = 10cm

Bài 4.

$\boxed{0}$ + 43 = 43 56 - $\boxed{0}$ = 56

22 + $\boxed{5}$ = 27 35 - $\boxed{4}$ = 31

Bài 5. Bài giải

Đổi: 1 tuần = 7 ngày

Bạn Bình về thăm ông bà nội số ngày là:

7 + 2 = 9 (ngày)

Bạn Bình về thăm ông bà ngoại số ngày là:

7 + 3 = 10 (ngày)

Bạn Bình về thăm ông bà nội ngoại số ngày là:

9 + 10 = 19 (ngày)

Đáp số: 19 ngày

Bài 6. a.Có 7 hình tam giác b. Có 5 vuông

ĐÁP ÁN ĐỀ SỐ 17

Bài 1. 5 - 2 - 2 = 1 5 + 2 > 3 + 1

5 + 2 - 2 = 5 5 - 2 < 3 + 1

(Học sinh có thể điền đáp án đúng khác)

Bài 2.

a. - Các số có 1 chữ số: 9, 8, 0 - Các số có 2 chữ số: 28, 17, 10, 90, 55, 72, 42

- Số nhỏ nhất có 2 chữ số: 10 - Số lớn nhất có 1 chữ số là: 9

b. 0, 8, 9, 10, 17, 28, 42, 55, 72, 90

Bài 3. 50 + 30 = 80 90 - 40 = 50 29cm – 5cm = 24cm

27 + 2 = 29 15 + 2 - 3 = 14 87 - 2 - 4 = 81

Bài 4.

Bài giải

1 tuần = 7 ngày

Vậy thứ năm của tuần liền sau là ngày: 11 + 7 + 1 = 19

Đáp số: ngày 19

Bài 5.

Bài giải

2 chục = 20

Nga hái được số bông hoa là:

49 - 20 = 29 (bông)

Đáp số: 29 bông hoa

Bài 6. 3 hình tam giác 3hình vuông

ĐÁP ÁN ĐỀ 18

Bài 1.

22 + 2 + 3 > 5 + 20 + 1 62 + 15 – 30 < 62 + 30 – 42

Bài 2.

54 $\xrightarrow{-30}$ 24 $\xrightarrow{+15}$ 39 $\xrightarrow{-39}$ 0

Bài 3. 14 + 5 - 6 - 3 = 10 18 - 5 + 4 - 2 = 15

Bài 4.Đáp án: 23 số

Bài 5.

54 - 23 - 14 + 63
= (54 – 14) + (63 – 23)
= 40 + 40
= 80

12 + 17 + 14 + 8 + 3 + 6
= (12+8) + (17 + 3) + (14 + 6)
= 20 + 20 + 20
= 60

Bài 6. Bài giải

Số phải tìm là:
77 – 23 + 32 = 86
Đáp số: 86

Bài 7.

Bài giải

Tuổi anh Hải 3 năm trước là:
14 – 3 = 11 (tuổi)
Tuổi anh Hải 4 năm sau là
14 + 4 = 18 (tuổi)
Đáp số: 3 năm trước: 11 tuổi
4 năm sau: 18 tuổi

ĐÁP ÁN ĐỀ 19

Bài 1.

8 0	4 3	9 2	5 8
+ 1 9	+ 3 5	- 2 2	- 3 3
9 9	7 8	7 0	2 5

Bài 2.

a. 45 - 40 + 15 = 20 b. 75 + 14 - 18 = 71

c. 12 + 23 + 50 = 85 d. 99 - 45 - 14 = 40

Bài 3. *Bài giải*

Bình cho bạn số viên bi là:

50 – 30 = 20 (viên)

Đáp số: 20 viên bi

Bài 4. a. 1; 4; 7; 10; 13; 19;22.

b. 24; 22; 20;18; 16; 14; 12; 10;8; 6; 4; 2; 0.

Bài 5.

Đề bài: Ba có 15 cái kẹo, Nam có nhiều hơn Ba 10 cái kẹo. Hỏi Nam có bao nhiêu cái kẹo?

Bài giải:

Nam có số cái kẹolà:

15 + 10 = 25 (cái)

Đáp số: 25 cái kẹo

Bài 6.

(Học sinh có thể có cách vẽ đúng khác)

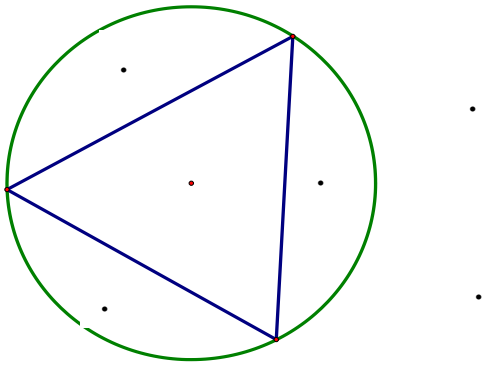

ĐÁP ÁN ĐỀ 20

Bài 1. Thứ tự các số: 2, 8, 10, 4.



Bài 2. Thứ tự: Đ, S, S, S.

Bài 3. a. 10 – 6 + 2 = 6 c. 6 – 4 + 5 = 7

b. 8 + 2 – 6 = 4 d. 10 – 7 + 6 = 9

Bài 4. a.10 đoạn thẳng b. 8 hình tam giác

Bài 5.

Bài giải

Cành trên còn số con chim là:

10 - 1 = 9 (con)

Cành dưới có số con chim là:

5 + 1 = 6 (con)

Đáp số: 9 con chim

6 con chim

Bài 6.

Bài giải

Số hoa Lan hái được là:

18 - 7 = 11 (bông)

Đáp số: 11 bông hoa

ĐÁP ÁN ĐỀ 21

Bài 1.

a. 61 + 36 = 98 – 1

97 97

b. 23 + 14 < 32 + 6

37 38

c. 40 + 50 < 99 – 8

90 91

d. 89 – 27 > 89 – 29

62 60

Bài 2.

a. 1 + 3 + 8 + 0 + 6 + 10 + 2

= (1 + 3 + 6) + (8 + 2) + 10

= 10 + 10 + 10

= 30

B. 17 + 14 + 2 + 8 – 7 – 4

= (17 – 7) + (14 – 4) + (2 + 8)

= 10 + 10 + 10

= 30

Bài 3.

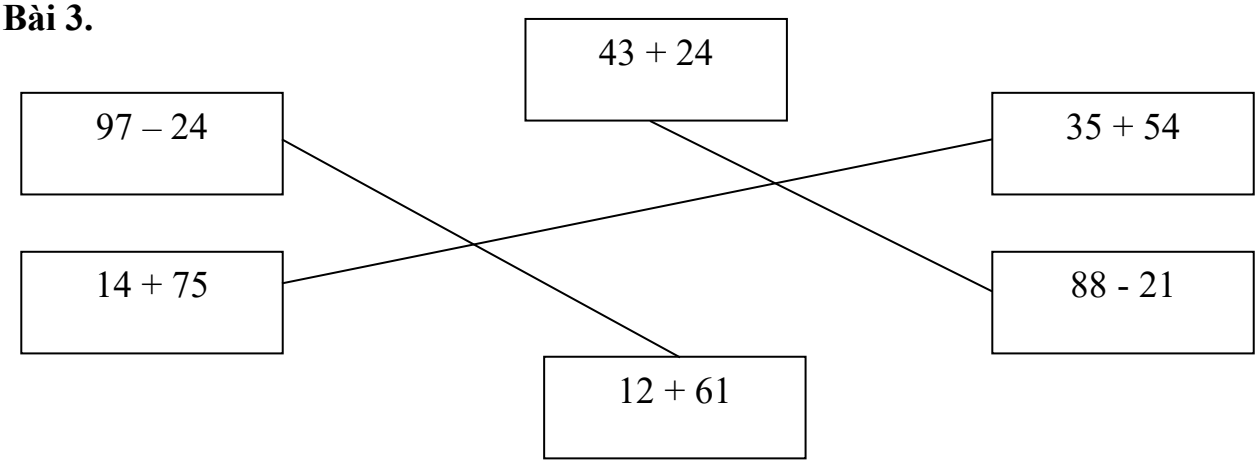

Bài 4.

Bài giải

Nhà An có số con ngan là:

36 - 6 = 30 (con)

Nhà An có số con ngỗng là:

30 - 10 = 20 (con)

Nhà An có tất cả số con vịt, ngan, ngỗng là:

36 + 30 + 20 = 86 (con)

Đáp số: 86 con

Bài 6.

23	32	14
14	23	32
32	14	23

Bài 5. 8 hình tam giác; 5 hình vuông

ĐÁP ÁN ĐỀ 22

I.Phần trắc nghiệm

Bài 1.

8 0		4 3	
+ 1 9	+ 3 5		
9 9		7 8	

Bài 2. a. 45 - 40 + 15 = 20 b. 75 + 14 - 18 = 71

Bài 3. Đáp số: 91

Bài 4. Đáp số: 23

Bài 5. Đáp số: 28

Bài 1. Đáp số: 6

Bài 7. Đáp số: lớp 1

II/ Phần tự luận

Bài 1.

Số cần tìm là: 31 + 35 - 42 = 24

Bài 2. Quyển sách của Dũng có số trang là:

32 + 26 = 58 (trang)

Đáp số: 58 trang

Bài 3. Hình bên có 7 hình tam giác

ĐÁP ÁN ĐỀ 23

Bài 1.

14 là số liền trước của số 15

Số bé nhất có hai chữ số là 10

81 là số liền sau của số 80

Ba chục que tính là 30 que tính.

Bài 2. Tính:

12 + 5 – 3 = 14 29 – 4 + 5 = 30

40 + 14 – 3 = 51 36 - 26 + 20 = 30

64 + 5 - 20 = 49 44 - 42 + 23 = 25

38cm – 6cm + 20cm = 52cm 40 cm + 7cm – 47cm = 0cm

Bài 3. a. Điền số hoặc dấu thích hợp vào ô trống:

a.

80 - [60] + 20 = 40 64 [-] 53 [+] = 27 - 15

28 - 5 + 6 > 27 - 4 + [2] 62 + 15 - 30 [<] 62 + 30 - 42

74 - [4] - 20 = 50 87 - [12] > 65 [-] 23

b.

74 + 54 + 44 - 50 - 40 – 70

= 74 - 70 + 54 - 50 + 44 - 40

= 4 + 4 + 4 = 12

Bài 4. Số liền sau số 32 là 33

Quyển truyện dày số trang là:

24 + 33 = 57 (trang)

Đáp số: 57 trang

Bài 5.

- Có 7 điểm - Có 16 đoạn thẳng - Có 7 tam giác

Bài 6. Số thay cho dấu "?": 8